粉笔直播课

理论攻坚-四川省情

(笔记)

主讲教师：付佳男

授课时间：2025.07.15

粉笔事考·官方微信

理论攻坚-四川省情（笔记）

【答案汇总】

一、1-5：A/A/D/ABCD/ABCD；6-9：ACD/ABD/×

二、1-5：BCBBB；6-9：BC/ABC/A/√

三、×

四、1-3：ABCD/BCD/ACD

【注意】本节课是理论攻坚-四川省情：更多结合四川省地理知识考查，也有结合最新时政知识考查的，但是这种题目整体考查不多，积累的时候关注重要的四川省时政即可，课包中也有四川省时政，平时多关注即可，但需要积累量很大，对我们有一定压力，如果不追求高分，掌握清楚理论课的知识即可，在地理和省情部分就可以保底。但是如果想要多拿高分、面试省力，则需要卷一些。经济比较发达的地方会竞争激烈一些如成都，其他地市可能凉山、绵阳竞争也比较激烈，大家加油即可。

第二章　四川省情

【解析】四川省情：如果考查地理，有考查方式，来自省政府官网或者考地市如考阿坝，可能考查市情，之前成都考查市情，但是现在成都参加联考，考查市情不多，宜宾也会考查市情，但是宜宾的市情非常简单，做一下历年真题即可，从历年真题来来回回考查。德阳前几年会考查市情，近几年不太会考查，自贡、南充、西昌（凉山）等都是不考查市情的。

第一节　省情概况

一、地理概况

（一）位置面积

四川省位于中国西南，地处长江上游，与重庆、贵州、云南、西藏、青海、甘肃和陕西等 7 省（自治区、直辖市）接壤。全省面积 48.6 万平方千米，居全国第五位，人均国土面积低于全国平均水平。

【解析】四川省的位置和面积：四川位于我国的西南，地处于长江上游，因为长江发源于青海青藏高原，第二个流经省份是四川，属于上游。

1.考法：考查和四川相邻的兄弟省份，前几年考查比较多，但考查比较简单，近些年考查难度提升，这种基础题考查较少，了解即可。东边挨着重庆（简称渝），南边挨着贵州（简称黔）、云南（简称滇），西边挨着西藏（简称藏）、青海（简称青），北边挨着甘肃（简称甘/陇）、陕西（简称陕/秦），即七个兄弟省份“渝黔滇藏青甘陕”。近几年考查不多，了解即可。

2.全省面积 48.6 万平方千米（如图，面积比较大），居全国第五位（前四位从大到小依次是新疆——最大、西藏、内蒙、青海），因此四川还是非常大的。

3.人口：人比较多（如成都地铁站、地铁线路人非常多，其他地方人也不少），四川人口总数为 8368 万，人口数量居全国第五位，不管从面积，还是从人口，都是比较合理的情况，不多，也不少，比较适中。四川省的人均国土面积低于全国平均水平（记忆），比如河南人多，但是面积比四川小很多，具体数字不会考。

（二）地形地貌

全省地貌东西差异大，地形复杂多样。地势西高东低，西部为高原、山地；东部为盆地、丘陵。全省可分为四川盆地、川西北高原和川西南山地三大部分。

四川最高点位于甘孜藏族自治州康定市贡嘎山乡贡嘎山主峰。

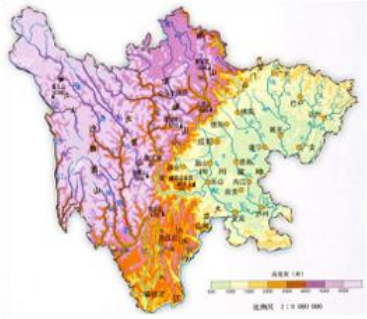

【解析】地形地貌：

1.从整个阶梯的角度来说，四川呈现三级阶梯，如川西北是高原、川西南是山地、东侧是第三阶梯（长江中下游盆地，即四川盆地），我们处于长江中下游过度地带。地形海拔非常悬殊，地形地势和我国一样，也是西高东低，西部为高原、山地；东部为四川盆地、丘陵。全省可分为四川盆地、川西北高原和川西南山地三大部分（掌握）。

2.四川自古以来山多，有蜀道难之称，四川省最高的山位于甘孜藏族自治州康定市贡嘎山乡贡嘎山主峰（四川康定以南，横断山脉主峰，海拔为 7556 米，是四川省最高山，因此贡嘎山又被称为蜀山之王）。

四川盆地是我国四大盆地之一，以浅丘和平原为主，面积 16.5 万平方千米。四川盆地也被称为“紫色盆地”，囊括四川省中东部和重庆大部。盆地北部为秦岭，东部为米仓山、大巴山，南部为大娄山，西北部为邛崃山等山地。

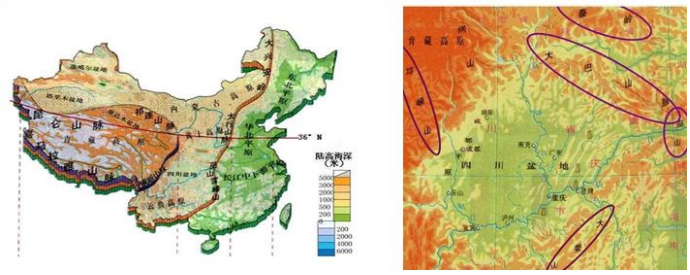

【解析】

1.四川盆地是我国四大盆地之一，以浅丘和平原为主，面积 16.5 万平方千米（具体数字不用记忆），位于第二阶梯之上（国情的时候强调过）。

2.四川盆地也被称为“紫色盆地”，四川各种东西都发展不错，囊括四川省中东部和重庆大部。

3.盆地一定是中间低、四周高，一周都是山，如北边有秦岭、大巴山（陕西、

四川、湖北三省的界山），南边有大娄山（贵州高原和四川盆地的分界线），西北部为邛崃山（四川盆地和青藏高原的分界线），还有巫山，东部为米仓山、大巴山，山脉较多，记忆口诀“来秦巴楼”，分别指邛崃山、秦岭、大巴山、大娄山。

（三）气候

四川气候复杂多样，且地带性和垂直变化明显。根据水热条件和光照条件差异，全省分为三大气候区：四川盆地中亚热带湿润气候区、川西南山地亚热带半湿润气候区、川西北高山高原高寒气候区。

气象灾害种类多，主要有干旱，其次是暴雨、洪涝和低温等。

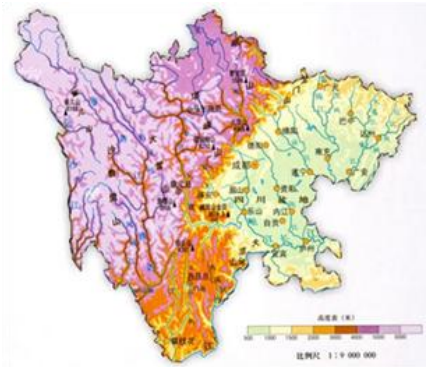

【解析】四川省气候非常复杂多样，且地带性和垂直变化十分明显，因为四川在川西北，海拔比较高，整个四川川西南、川西北都很高，常说“一山有四季，十里不同天”，比如贡嘎山的海拔为 7000 多米，山顶和山脚的气候明显不同；再如四姑娘山的山顶下雪，山下是草原，气候的地带性和垂直性变化十分明显。

1.根据四川省水热条件和光照条件差异，全省分为三大气候区，和地势是对应的。

（1）四川盆地中是亚热带湿润气候，四川盆地周围被大山包围，全年温暖、湿润，平均气温大概在 16-18℃，因为其盆地地势，空气湿润，云雾较多，对大气的削弱作用比较强，整个四川盆地中光照时间短，雨水 50%以上都是集中在夏季。

（2）川西南山地为亚热带半湿润气候，海拔高了一些，降水没有那么多，早寒午暖，气候差异比较大，光照时间较长，如到凉山、西昌会感觉气候非常舒服，这个地方也非常好，但紫外线照射多，是半湿润。再如攀枝花都属于川西南。

（3）川西北为高山高原高寒气候区，整体海拔较高，气候立体变化非常明

显，冬寒夏凉，气温在 4-12℃左右，气温相对较低。

（4）四川呈现明显特点是雨热同期，天气越热，降水越多。

2.气象灾害种类多，主要是干旱，其次是暴雨、洪涝和低温等，比如四川有一年发生了干旱，导致河流水量减少，导致四川缺电，因此干旱影响最大。

（四）河流湖泊

1.河流

四川河流众多，境内共有大小河流近 1400 条，号称“千河之省”。除西北的白河、黑河注入黄河外，其余均属长江水系。水资源总量丰富，人均水资源量高于全国。

【解析】河流：

1.四川河流非常多，境内共有大小河流近 1400 条，号称“千河之省（了解，前些年考查简单会考查，但近些年考查不多）”；判断：四川省所有河流都属于长江水系（错误），原因：有两个比较特殊的，即黑河和白河是黄河水系，白河是黄河上游的支流，位于阿坝州，在阿坝州唐克镇注入黄河，而黑河是在四川省北部的若尔盖县，于甘肃注入黄河。因此不都是长江水系，还有黄河水系。

2.四川省的水资源总量丰富，人均水资源量高于全国平均水平（注意），因为我们河流太多。

3.重要河流：雅砻江、岷江、嘉陵江、大渡河、涪江等，河流非常多。四川省最西边有条河叫金沙江属于长江，长江在不同的江段有不同的名字，整体叫长江，长江从上游到下游依次被称为金沙江、长江、扬子江，金沙江是因江水中的沙土呈黄色而得名，金沙江不仅流经四川，往下还流到云南。

（1）形成三江并流的景观（国情会讲到），三条江自北向南并行千里但不交汇，三江分别是金沙江、澜沧江、怒江；区分：三江源指的是长江、黄河、澜沧江。

（2）四川省主要发展水电，2014 年发布《四川省人民政府关于推动我省水电科学开发指导意见》的文件中提到四川要建成三江七片两线的水电基本格局，三江指的是金沙江、雅砻江、大渡河。

2.湖泊

主要分布在西部高原山地地区，较大的湖泊有泸沽湖、邛海和马湖等。其中邛海是四川面积最大的湖泊。

【解析】湖泊：湖泊：主要分布在西部高原山地地区，高山融水、融雪形成湖泊，较大的湖泊有泸沽湖（比较大，非常出名，面积是 48.5 平方公里，是我国最清澈的高原深水湖泊之一，在泸沽湖上居住着很多民族，如摩梭人，是我国唯一一个仍然存在母系氏族的社会，男不娶，女不嫁，实行走婚繁衍后代，摩梭人在白天的时候，男女很少单独相处，只有到晚上聚会的时候唱歌、跳舞表达喜欢对方，如果男子对女子倾心，则可以在白天和女子约好半夜去女子的房间，把帽子挂在窗户上，表明房间里有人正在约会，其他人不要再进来了，男子在第二天天亮时离开，否则会被发现）、邛海（四川省最大的湖泊，老师在去西昌上课的时候曾经步行绕着邛海走了一圈）和马湖（是天然的深水湖泊）等。其中邛海

是四川面积最大的湖泊（注意），泸沽湖属于四川和云南共有的，在四川省境内的面积小于邛海。

（五）自然资源

1.生物资源

四川生物资源十分丰富，保存有许多珍稀、古老的动植物种类，是中国及世界重要的生物基因宝库。

四川野生植物资源种类繁多，有高等植物 1 万余种，仅次于云南居全国第二位。其中药用植物 4600 余种，是全国最大的中药材基地；芳香及芳香类植物 300 余种，是全国最大的芳香油产地；野生果类植物 100 余种，其中以猕猴桃资源最为丰富，居全国之首；四川是全国最大的竹浆造纸集聚发展区，四川竹产业总产值已突破 1100 亿元大关，位列全国第二。

【解析】自然资源：四川是非常好的宝地。

1.四川生物资源非常丰富，保存有许多珍稀、古老的动植物种类（生物资源非常丰富，植物、动物考查非常多），是中国及世界重要的生物基因宝库（地位非常重要）。

2.四川野生植物资源种类繁多，有高等植物 1 万余种，仅次于云南居全国第二位，知道野生植物资源位居第二位即可。把植物划分为不同类型，如果植物有药用成分，可以做中药，四川中药很丰富，是全国最大的中药材基地，比如四川省成都市彭州县号称千年药乡、百年药城，有非常地道的四川中药材——川穹，种植面积稳居全国第一，还有川贝母、天冬；芳香及芳香类植物 300 余种，是全国最大的芳香油（植物精油）产地，很多植物都可以提取炼精油，如柠檬、生姜、薄荷、甘松、松树等；也可以生产水果，野生果类植物 100 余种，其中以猕猴桃资源最为丰富，居全国之首，比如红心猕猴桃在四川省广元市苍溪县，苍溪县是世界上最大的红心猕猴桃产地，都江堰也有猕猴桃。

3.四川比较靠南，气候非常舒服，也有竹子（大熊猫爱吃），是全国最大的竹浆造纸集聚发展区，四川竹产业总产值已突破 1100 亿元大关（根据省政府报告，2025 年要跃居 1200 亿元），位列全国第二，根据统计，全国三分之二的竹浆都是在四川生产的，所以占全国竹浆总产能的 70%左右。

四川动物资源丰富，国家重点保护野生动物种类居全国之冠，野生大熊猫种群数量居全国第一位，雉类资源也极为丰富，素有“雉类的乐园”之称。

【解析】四川动物资源丰富：

1.比如人见人爱的大熊猫，四川省野生大熊猫的种群数量达到 1300 多只，居全国第一位，全国 80%以上的大熊猫都是在四川，主要分布在岷山、邛崃山、凉山等地，四川也被称为“大熊猫的故乡”，大熊猫对所有人都是非常可爱的动物。

2.雉类资源也极为丰富，雉类动物是指鸡形目下的一个科，雉类动物如孔雀、红腹锦鸡、石鸡，素有“雉类的乐园”之称。

3.喜欢考查大熊猫。

2.矿产资源

四川地质构造复杂，成矿条件有利，矿产资源丰富。天然气、钒、钛、二氧化碳气、锂矿等 14 种矿产在全国查明资源储量中排第一位，铁矿、铂族金属、稀土矿（稀土氧化物）等 10 种矿产在全国查明资源储量中排第二位。

四川矿产资源特点主要有四个。一是资源总量丰富，人均占有量低于全国水平；二是大型或特大型矿床分布集中，区域特色明显；三是部分重要矿产以贫矿和低品质矿为主，富矿不足；四是矿床的共生、伴生矿多。

【解析】矿产资源：四川山多，山多必然有矿，近几年考查很多。

1.四川地质构造复杂，成矿条件有利，矿产资源丰富。根据政府官网数据，天然气（每天生活做饭都在用，在第一位）、钒（把钒掺入钢中会制成钒钢，钒钢比普通钢的结构更加紧密，韧性、弹性、机械强度更高，钒是全国第一、世界第三）、钛（20 世纪 50 年代发展起来的一种非常重要的结构金属，强度高，很轻，无毒，制成钛合金优势明显，四川省的钛占全国钛储藏量的 93%，居全球第一位）、二氧化碳气（工业上会用到二氧化碳，制作其他东西，也是一种矿藏资

源，大概了解即可，这点这么多年也没有考查过）、锂矿（主要用于制作新能源汽车的电池，锂电池）等 14 种矿产在全国查明资源储量中排第一位。铁矿、铂族金属、稀土矿（稀土是非常重要的资源）等 10 种矿产在全国查明资源储量中排第二位（排在第二位的了解即可）。再如盐矿（自贡产盐非常厉害）、硫铁矿（制造硫酸的）也是全国第一。

2.四川有这么多矿产资源，矿产资源再丰富，不能像水那么丰富，特点主要有四个。

（1）一是资源总量丰富，人均占有量低于全国水平。因为四川人多，矿再丰富，不能像水那么丰富，一人均肯定低于全国平均水平。

（2）二是大型或特大型矿床分布集中，如果矿聚集在一起，方便开采，形成区域特色明显的分布。有山的地方才有矿，比如川西南、川南、川西北，整个矿都在这三个部分，分布非常有特色，比如川西南以黑色、有色金属、稀土资源为优势；川南以硫、煤、磷、天然气为主，都是非金属的，是我国重要工业基地之一；川西北多为稀贵金属，比如锂（新能源）、铀（核能）、金、银，是潜在的高端技术原材料供应地。

（3）三是部分重要矿产以贫矿和低品质矿为主，虽然集中，但富矿不足，除了铅锌银铬等品质稍高，其余均为中品矿。

（4）四是矿床的共生（两种或多种矿物在同一个晶体内生长，彼此之间相互依存、相互补充）、伴生（多种矿物在同一矿藏中形成，彼此之间并不直接联系，但在地质作用过程中同时出现）矿多，比如攀西的钒钛磁铁矿（铁、钒、钛共生）、川南的煤矿（煤、硫共生）、川西北的锂矿（锂、钋共生）。

（5）知道有四个特点即可，可能单独拿出来某个进行考查。

3.能源资源

四川能源资源丰富，以水能、煤炭和天然气为主。全省水能资源理论蕴藏量 1.43 亿千瓦，占全国的 21.2%，仅次于西藏，是我国最大的水电开发和西电东送基地。

全省水能资源集中分布于川西南山地的大渡河、金沙江、雅砻江三大水系。

【解析】能源资源：

1.四川能源资源丰富，以水能（水能在第一位，重点，四川号称“千河之省”，地势分为三级阶梯，西高东低，流水落差大，形成了非常丰富的水能，可以用于发电，四川水电站非常多，比如二滩水电站、溪洛渡水电站、白鹤滩水电站等，四川省水能资源理论蕴藏量仅次于西藏，排在全国第二位，西藏第一，因为青藏高原的水能资源丰富，西藏在青藏高原上，但西藏受地理条件的影响，不宜开采和使用，实际投入占比不如四川高，因此四川是我国最大的水电开发和西电东送基地）、煤炭（全国还是这样的趋势，主要靠煤）和天然气（天然气第一）为主。

2.四川号称千河之省，但不是所有河都建水电站，全省水能资源集中分布于川西南山地的大渡河、金沙江、雅砻江三大水系，这些地方的水电站非常多，落差大，水能丰富，越靠西，水能资源越丰富。

（六）旅游资源

1.世界遗产 5 处

世界自然遗产 3 处：九寨沟、黄龙、大熊猫栖息地；世界文化与自然遗产 1 处：峨眉山—乐山大佛；世界文化遗产 1 处：青城山—都江堰。

【解析】旅游资源：四川非常富，除了自然资源、矿产资源多，也有非常多风景名胜，四川自古以来都是大家去旅游的热点，四川有非常多的文化遗产和旅游资源。有世界遗产 5 处，包括自然遗产、文化遗产、文化和自然双重遗产三类。

1.世界自然遗产 3 处（美不可收）：九寨沟（位于阿坝藏族羌族自治州九寨沟县境内，九寨沟的风景非常秀丽，拍出照片非常好看）、黄龙（位于四川省阿坝藏族羌族自治州松潘县，1992 年入选世界自然遗产，最独特的是溶洞景观，动物资源非常丰富，如大熊猫、金丝猴等，黄龙的瑶池在全国非常出名，非常漂亮）、大熊猫栖息地（涵盖成都、雅安、阿坝、甘孜等 4 个市州、12 个县，2006 年入选世界自然遗产；世界上第一只大熊猫在雅安宝兴县发现），现在各地搞文旅，四川文旅打出的口号是天府三（三星堆）九（九寨沟）大（大熊猫栖息地），安逸走四川。

2.世界文化与自然遗产 1 处（不仅有风景，还有文化）：峨眉山—乐山大佛，峨眉山是佛教的四大名山之一，大佛为弥勒佛坐像，通高 71 米，是中国最大的一尊摩崖石刻造像，不仅景色优美，还有非常浓厚的宗教文化气息，是文化和自然双重遗产。

3.世界文化遗产 1 处：青城山—都江堰。青城山是道教名山，峨眉山是佛教名山。都江堰是水利工程，由战国时期的李冰父子为治理岷江的水患而修建，历经 2000 多年，依旧发挥着重要的作用。

2.列入世界《人与生物圈保护网络》的保护区 4 处

九寨沟、黄龙、卧龙、稻城亚丁。

【解析】四川动植物资源非常丰富，列入世界《人与生物圈保护网络》的保护区 4 处：分别是九寨沟、黄龙、卧龙（保护大熊猫的，1963 年建立，位于汶川县西南方向）、稻城亚丁（位于甘孜藏族自治州，在稻城亚丁极目远眺可以看到有 1000 多个高山、湖泊散落在乱石之间，景色特别壮观，电影《从你的全世界路过》取景于四川，经典表情包“燕子燕子你别走”，里面有很多景色，即稻城亚丁，非常让人向往的地方）。

世界生物圈保护区（中国34个）					
名称	所在省份	加入年份	名称	所在省份	加入年份
长白山	吉林	1979	高黎贡山	云南	2000
鼎湖山	广东	1979	黄龙	四川	2000
卧龙	四川	1979	宝天曼	河南	2001
梵净山	贵州	1986	赛罕乌拉	内蒙古	2001
锡林郭勒	内蒙古	1987	达赉湖	内蒙古	2002
武夷山	福建	1987	五大连池	黑龙江	2003
博格达	新疆	1990	亚丁	四川	2003
神农架	湖北	1990	佛坪	陕西	2004
盐城	江苏	1992	珠穆朗玛	西藏	2004
西双版纳	云南	1993	车八岭	广东	2007
茂兰	贵州	1996	兴凯湖	黑龙江	2007
天目山	浙江	1996	猫儿山	广西	2011
丰林	黑龙江	1997	牛背梁	陕西	2012
九寨沟	四川	1997	井冈山	江西	2012
南麂列岛	浙江	1998	蛇岛-老铁山	辽宁	2013
山口	广西	2000	汗马	内蒙古	2015
白水江	甘肃	2000	黄山	安徽	2018

【注意】我国《人与生物圈保护网络》很多，不需要都关注，卧龙是第一批入选的（1979 年），九寨沟（1997 年），黄龙（2000 年），亚丁（2003 年），最新加入的是安徽的黄山。

3.国家历史文化名城 8 座

成都市、宜宾市、自贡市、阆中市、乐山市、都江堰市、泸州市和会理市。



【解析】四川拥有非常悠久历史，国家历史文化名城 8 座：数量非常多，分别是成都市、宜宾市、自贡市、阆中市、乐山市、都江堰市、泸州市和会理市，记忆口诀“成（成都）都（都江堰）自（自贡）乐（乐山），泸（泸州）宜（宜宾）会（会理）阆（阆中）”。

1.成都市：有武侯祠、青羊宫。

（1）武侯祠：有一个红墙很多人在这拍照，非常出片。主要为了纪念刘备、诸葛亮等蜀汉英雄，不单单是纪念诸葛亮，但是里面很多是诸葛亮的东西。

（2）青羊宫：位于成都，建于周朝，后来被摧毁了，现存的是清朝康熙年间重新修复的，传说道家的始祖老子曾经骑着青羊到地处讲经，所以命名为青羊宫，研究道家文化。

2.宜宾：如图是两个世界级景区。

（1）蜀南竹海：是世界上集中面积最大的天然竹林景区，独特地理位置造就了云山竹海，天上人间；有很多拍竹子的电影都是在这拍的，如《卧虎藏龙》

《大人物》等。

（2）石海洞乡：主要是石林、溶洞，特别是兴晏乡的天然大漏斗，大漏斗即碗型的洼地，超过了美国的大漏斗，是世界第一大漏斗。

（3）去宜宾旅游可以两个地方一起看，离得很近，车程 1 小时左右。

3.自贡市：盐比较出名，有盐业历史博物馆。

4.阆中市：阆中古城有 2300 多年的历史，是古代的军事重镇。

5.泸州：四川白酒出名，如五粮液，泸州老窖，泸州老窖在全国非常出名。

6.都江堰：古代水利工程。

【注意】自然地理概况：

1.位置面积。

（1）接壤省份（7 个）：渝黔滇西，青甘陕。

（2）面积大小：48.6 万平方千米，居全国第五。

2.地形地貌：

（1）西高东低，分为三个部分。

（2）四川盆地。

①面积：16.5 万平方公里。

②周围主要山脉：邛崃山、秦岭、大巴山、娄山，口诀“来秦巴楼”。

（3）川西北高原。

（4）川西南山地。

3.河流：

（1）号称“千河之省”。

（2）除黑河、白河外，其他河流注入长江。

（3）金沙江：长江的上游，宜宾以上称金沙江。

（4）雅砻江：与长江交汇形成重要城市--攀枝花。

4.气候：地形不同导致气候不同，四川盆地-中亚热带湿润气候、川西南山地-亚热带半湿润气候、川西北高山-高原高寒气候。

5.湖泊：邛海，四川境内面积最大。

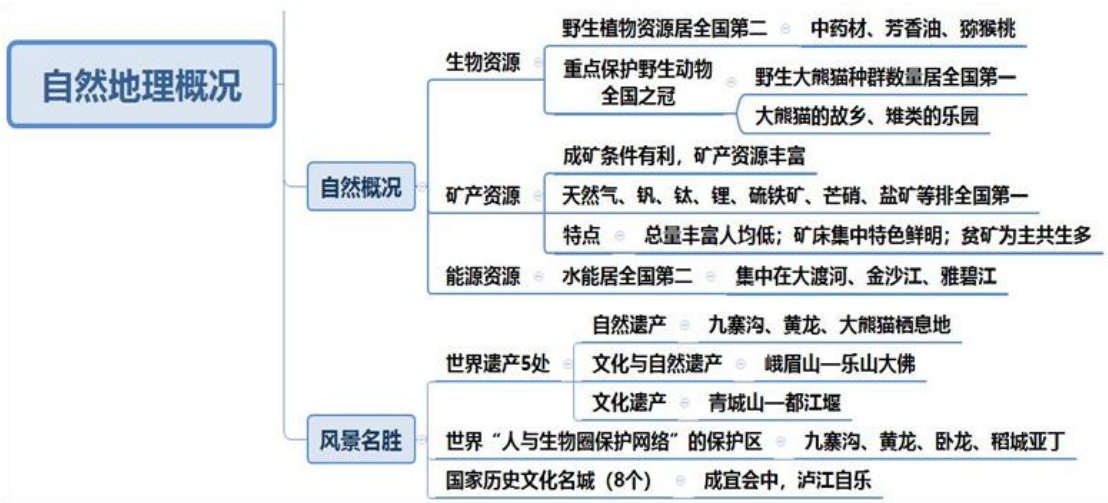

【注意】

1.自然概况：

（1）生物资源：

①野生植物资源居全国第二：中药材、芳香油、猕猴桃位于全国第一，是比较重要的资源；竹产业全国第二。

②重点保护野生动物（全国之冠）：野生大熊猫种群数量居全国第一；大熊猫的故乡、雉类的乐园。

（2）矿产资源。

①成矿条件有利，矿产资源丰富。

②天然气、钒、钛、锂、硫铁矿、芒硝、盐矿等排全国第一。

③特点：总量丰富人均低；矿床集中特色鲜明；贫矿为主共生多。

（3）能源资源：水能居全国第二，集中在大渡河、金沙江、雅砻江。

2.风景名胜：

（1）世界遗产 5 处：

①自然遗产：九寨沟、黄龙、大熊猫栖息地。

②文化与自然遗产：峨眉山—乐山大佛。

③文化遗产：青城山—都江堰。

（2）世界“人与生物圈保护网络”的保护区：九寨沟、黄龙、卧龙、稻城亚丁。

（3）国家历史文化名城（8 个）：口诀“成宜会中，泸江自乐/成都自乐，泸宜会阆”。

试题演练

1.（2018 四川德阳·单选）下列关于四川自然状况的阐述，不正确的是（　）。

A.四川水能资源理论蕴藏量居全国第一

B.四川国土面积居全国第五位

C.四川气候复杂多样，且地带性和垂直变化十分明显

D.四川号称“千河之省”

【解析】1.选非题。A 项：水能理论蕴藏量应该是第二位，仅次于西藏，当选。【选 A】

2.（单选）小王从外省到四川旅游。下列景象中，他不可能在四川欣赏到的是（　）。

A.走马川行雪海边，平沙莽莽黄入天

B.天苍苍，野茫茫，风吹草低见牛羊

C.云头齐拥剑门上，峰势欲随江水东

D.金沙水拍云崖暖，大渡桥横铁索寒

【解析】2.选非题。

A 项：意思是辽阔的走马川靠着雪海边缘，厚厚的雪堆积，茫茫无边的黄沙连天，说明此处有沙漠、有雪山，四川有雪山，但四川没有沙漠，沙漠在西北内

陆地区，当选。

B 项：四川有草原，如若尔盖草原，藏区也会发展畜牧业，排除。

C 项：对应广元的剑门关，“峥嵘而崔嵬，一夫当关，万夫莫开”，出自李白《蜀道难》，排除。

D 项：出自毛泽东同志的《七律·长征》，金沙江逐浪滔天，拍击着高耸入云的陡峭悬崖给人温暖的感觉，大渡河险桥横架晃动着临空高悬的根根铁索，使人感到寒意，二者都流经四川，排除。【选 A】

3.（单选）下列不符合四川省地形地貌特点的是（ ）。

A.地貌东西差异大，地形复杂多样

B.四川可分为四川盆地、川西北高原和川西南山地三大部分

C.西南山地为横断山脉，山高谷深，山河相间

D.东部的四川盆地是中国的四大盆地之一，北接米仓山、大巴山，南缘大娄山

【解析】3.选非题。考查比较细。

A 项：四川内部也可以看做一二三级阶梯，排除。

B 项：说法正确，排除。

C 项：横断山是一系列南北走向的山脉，有很多山河，如岷山、岷江、邛崃山、大渡河、大雪山、雅砻江等，排除。

D 项：北接秦岭，东接米仓山、大巴山，南缘大娄山，西北有龙门山、邛崃山，当选。【选 D】

4.（多选）下列关于四川省矿产资源的说法，正确的有（ ）。

A.钛储量占全国 93%，列全球第一

B.矿产集中分布在川西南、川南、川西北，并各具特色

C.天然气、钒、锂矿等 14 种矿产在全国查明资源储量中列第一位

D.矿产资源总量丰富，但人均占有量低于全国水平

【解析】4.D 项：因为四川人多，当选。【选 ABCD】

5.（多选）下列省份中与四川省相邻的有（　）。

A.陕西省　　B.青海省

C.云南省　　D.甘肃省

【解析】5.陕西在四川北边，青海在西边，云南在南边，甘肃在北边。【选ABCD】

6.（多选）下列四川省景点中，只属于自然遗产的有（　）。

A.九寨沟　　B.峨眉山

C.黄龙　　D.大熊猫栖息地

【解析】6.B 项：峨眉山有乐山大佛，是佛教，属于文化+自然遗产，排除。【选 ACD】

7.（多选）四川省山川秀丽、旅游资源丰富。大学生小丁暑假计划去四川省旅游，则下列哪些旅游景点可能出现在他的行程计划表上？（　）

A.九寨沟　　B.峨眉山

C.凤凰古城　　D.阆中古城

【解析】7.C 项：凤凰古城位于湖南，排除。【选 ABD】

8.（判断）四川省生物资源丰富，保存有许多珍稀、古老的动植物种类，其中高等植物有 1 万余种，居全国第一位。（　）

【解析】8.应该是排在全国第二位，仅次于云南。【选×】

9.（判断）2024 年，四川省竹林面积、竹产业产值均位居全国第一。（　）

【解析】9.我们是竹浆造纸集聚发展区，竹林面积、竹林产值是福建第一，福建是我国森林面积最大的省份，森林覆盖率最高，而四川排在全国第二位。【选×】

二、社会历史简况

（一）历史沿革

四川先秦时为巴国、蜀国之地，北宋置川峡路，后分置益州、梓州、利州、夔州四路，总称四川路，始有四川之名。民国时期，今四川西部分治为西康省；1955 年西康省建制撤销，与四川省合并，原西康省金沙江以东各县划归四川省。1997 年四川分为今重庆直辖市和四川省，川渝分治。

【解析】历史沿革：四川如何发展到现在的样子，了解四川省历史。四川省非常有底蕴。

1.先秦时期已经存在，古有巴国、蜀国之地，我们是巴蜀，秦灭巴蜀，推行郡县制，设置了巴、蜀两郡；北宋置川峡路，后分置益州、梓州、利州、夔州四路，总称四川路，始有四川之名（记忆）。北宋时期，世界上第一张纸币交子在四川成都诞生，唐朝安史之乱以后，北方的经济不行，扬州和成都成为全国最繁华的工商业城市，地位超过长安、洛阳，唐朝的商业城市以扬州、益州为中心，宋代，民间造纸业进一步发展，作坊遍布全国，四川双流中和场一带生产的楮纸闻名天下，北宋赵匡胤为打仗筹款，使得川蜀铜钱奇缺，交易多用铁钱，铁钱的价值与铜钱比是 1：10 的比率，铁钱重、不好运输和清点，导致商人要来川做生意，四川商人要出川交易，都必须携带沉甸的钱币，还要走崎岖险峻的蜀道上，这样很难。于是，商人想到一个办法。四川地区第一次出现了“交子铺”，一种用楮纸刻印的票据——交子也由此产生。交子用雕版印刷，版画图案精美，上有密码、图案、图章等印记。掌握四川诞生世界上第一个纸币。

2.民国时期：今四川西部和藏东南一些地方合并为西康省，省会在康定、雅安等城市。1955 年，国务院决定撤销面积比较小、人口比较少的省份，西康省建制撤销，原西康省金沙江以东各县划归四川省，金沙江以西的昌都地区划入西藏，这个时间段，四川省的面积达到鼎盛，非常大。

3.1997 年，国务院批准将重庆改为直辖市，重庆和四川省平级，即川渝分治。

（二）历史名人

1.首批四川历史名人

大禹（夏）、李冰（战国）、落下闳（西汉）、扬雄（西汉）、诸葛亮（三国）、武则天（唐）、李白（唐）、杜甫（唐）、苏轼（北宋）、杨慎（明）。

2.第二批四川历史名人

文翁（西汉）、司马相如（西汉）、陈寿（西晋）、常璩（东晋）、陈子昂（唐）、薛涛（唐）、格萨尔王（藏族英雄）、张栻（南宋）、秦九韶（南宋）、李调元（清）。

3.近代名人

郭沫若、巴金、张大千、晏阳初、朱德、邓小平、陈毅、张思德、赵一曼。

【解析】

1.历史名人：四川省历史悠久，在这片热土上出现很多历史名人，考试一般给出名人，考查是否属于四川，对这些人物要有印象，这些人并非都是土生土长的四川人，可能是在四川当官，对于四川贡献较大或者在四川进行创作、写诗等，都是四川省历史名人，根据省政府发布的首批和第二批历史文化名人记忆即可。

2.首批四川历史名人：

（1）大禹：夏，大禹治水，出生于阿坝州，是四川人。

（2）李冰：战国时期的人物，主要在四川当官，战国时期的蜀郡太守，修建了都江堰工程。

（3）落下闳：西汉，编撰的《太初历》，确定了春节的起源，是阆中人。

（4）扬雄：西汉，是成都人，写汉赋。

（5）诸葛亮：三国，四川有武侯祠，他的老家在山东，在四川当官。

（6）武则天：唐，广元人。

（7）李白：唐，有争议，绵阳市政府官网中明确表述李白是绵阳人，也有说法是他出生于国外/中亚一带。

（8）杜甫：唐，在四川进行创作，写了《茅屋为秋风所破歌》，在成都。

（9）苏轼：北宋，四川眉山人。

（10）杨慎：明，四川新都人。

3.第二批四川历史名人：

(1) 文翁：西汉，安徽人，在四川任蜀郡太守。

(2) 司马相如：西汉，写汉赋，南充人。

(3) 陈寿：西晋，著有《三国志》，与《三国演义》不同，《三国志》是正史，南充人。

(4) 常璩：东晋，成都人。

(5) 陈子昂：唐代诗人，遂宁人。

(6) 薛涛：唐，是成都长大的才女。

(7) 格萨尔王：藏族英雄，四川有藏区。

(8) 张栻：南宋，“东南三贤”之一，成都人。

(9) 秦九韶：南宋，资阳人。

(10) 李调元：清代，德阳人。知道哪些人物是四川的即可。

4.近代名人：四川在近代史影响也很重要。

(1) 郭沫若：乐山人，文学家，文学成就更多，对近代我国很多方面都产生了较大影响。

(2) 巴金：主要生活在成都，文学家。

(3) 张大千：丽江人，国画大师，被西方艺坛称为东方之笔。

(4) 晏阳初：巴中人，他致力于平民教育，他和陶行知都是非常著名的教育家，被誉为世界平民教育之父。

(5) 朱德：南充人。

(6) 邓小平：广安人。

(7) 陈毅：资阳人。

(8) 张思德：担任过毛泽东同志的警卫员，南充人。

(9) 赵一曼：宜宾人，哈尔滨有一曼街，哈尔滨人都知道赵一曼，她是宜宾人，宜宾很多地方都用赵一曼的名字命名。赵一曼属于东北抗联，参加抗日斗争，属于抗日英雄，东北地区的人对她非常熟悉。

5.四川名人有很多，此处挑选比较重要、常考的人物进行掌握，如果还知道其他历史名人可以积累，考到了能对应即可。

(三) 人口民族概况

2023 年末四川常住人口 8368 万人。四川省是全国最大的彝族聚居区、第二大藏区和唯一的羌族聚居区。彝族主要分布在凉山州、乐山市、攀枝花市；藏族主要分布在甘孜州、阿坝州和凉山州的木里自治县；羌族主要分布在阿坝州的汶川县、理县、茂县和绵阳市的北川、盐亭、平武县。

【解析】人口民族概况：

1.四川人口众多，民族也很丰富，2023 年末四川常住人口 8368 万人，居全国第五位。

2.四川并非都是汉族人，有很多少数民族，我国少数民族主要分布在东北、西北、西南地区，四川属于西南地区。

（1）四川是全国最大的彝族聚居区，彝族主要分布在凉山彝族自治州、乐山市、攀枝花市。

（2）四川是全国第二大藏区，四川藏族人口有 100 多万，主要分布在川西高原地区的甘孜州、阿坝州和凉山州的木里自治县，四川是除了西藏之外我国最大的藏族聚居区。

（3）四川是唯一的羌族聚居区，并非羌族都生活在这里。羌族主要分布在阿坝州的汶川县、理县、茂县和绵阳市的北川、盐亭、平武县等。羌族被称为云朵上的民族，很多人生活在半山腰，有些甚至生活在山顶上，清晨时分，从山脚下飘来的薄雾围绕着整个山村，慢慢升到山顶，仿佛在云朵之上，称为云朵上的民族。

（4）因为四川独特的地理位置，与西北地区联系紧密，西南的云南、贵州、甘肃、西藏、陕西、青海等少数民族比较多，位于四川盆地与青藏高原的衔接地带，自古以来四川就有民族走廊之称。

3.最大、第二、唯一等表述经常考，难度有所提升，也可能考查分布区域。

（四）行政区划概况

四川，简称“川”或“蜀”，省辖21个市（州），其中副省级城市1个、地级市17个、自治州3个，183个县（市、区）。

【解析】行政区划概况：人口分布在哪些地区。

1.四川，简称“川”或“蜀”（三国时期蜀国所在地），省辖21个（数字有印象）市（州），其中副省级城市1个（市委书记的行政级别与副省长相同，对应成都）、地级市17个（如绵阳、广元、巴中等）、自治州3个（需要掌握，包括阿坝、甘孜、凉山，可能考查单选题或多选题，用排除法做题即可），183个县（市、区）。

2.如图所示，从整体上来看，虽然四川省的面积很大，但是东边的城市面积不大，比较密集，西边的城市面积较大，四川省的城市格局是东部较多、西部较少，与地形有关，东部大多是平原，城市多、人口也多，西部多为山地高寒地区，不容易建设城市，人口较少。城市有大有小，各个市州的面积不同，2025年真题考过四川省面积最大的市州，对应甘孜州；面积最小的市州对应自贡市。

3.除了整体考查，比较重要的城市也可能单独考查，课程不可能讲解21个市州，此处讲解讲义上比较重要的城市。

1.成都

四川省省会，简称“蓉”，是西南地区重要的中心城市。成都因出现专门织造蜀锦的官营作坊“锦官城”而获得“锦官城”和“锦城”的别称。成都市有“蜀绣”“蜀锦”织造技艺、“成都漆艺”等制作技艺，还有高山古城遗址、宝墩遗址、金沙遗址等古蜀文化遗址。

【解析】成都：

1.四川省省会，是西南地区重要的中心城市，位于成都平原之上，自古以来物产丰富，自古就有天府之国的美誉。

2.简称“蓉”，秦灭蜀，设立蜀郡，五代以后开始种植芙蓉，有芙蓉城、蓉城之称，足球队的名称就是成都蓉城，成都市的市花是芙蓉花；别称锦官城、锦城，汉代时期，四川地区织锦业发达，专门设置锦官进行管理。

3.成都市有“蜀绣”“蜀锦”织造技艺、“成都漆艺”等制作技艺。

（1）成都的蜀锦是我国四大名锦之一（与云南云锦、苏州的宋锦、广西壮锦齐名）。

（2）蜀绣（也称为川绣）织造技艺发达，与苏绣、湘绣、粤绣齐名，是四大名绣之一。

（3）“成都漆艺”制作技艺：是我国最早的漆艺之一，成都的漆器也称为卤漆，商周时期就存在，在金沙遗址出土的器具残片上仍然存在很多纹饰斑斓、色彩亮丽的漆艺。

4.遗址：知道位于成都即可。

（1）成都历史悠久，有古蜀文明，典型代表为金沙遗址，成都市青羊区的4A级景区有金沙遗址，金沙遗址是继三星堆之后又一重大考古发现，出土了很多金器、铜器、玉器等珍贵文物，其中最具代表性的是太阳神鸟，大运会火炬的塔身造型取自太阳神鸟的12道太阳光芒，会徽和奖牌都融合了太阳神鸟的元素。

（2）高山古城遗址：位于大邑县，是新石器时代至商周的遗址。

（3）宝墩遗址：位于新津区，是整个川西地区最大、最早的古城，也是成都平原上发现年代最早、面积最大的史前城址。

2.绵阳

位于四川盆地西北部，古称“涪城”“绵州”，是四川省第二大城市。因城址

位于绵山之南而得名“绵阳”。是党中央、国务院批准建设的我国唯一的科技城，素有“富乐之乡、西部硅谷”美誉。

【解析】绵阳：四川省第二大城市。

1.古称“涪城”“绵州”，因城址位于绵山之南得名“绵阳”，常说“山之南，向太阳”，山南水北为阳，山的南边向着太阳，水的北边比较干。

2.绵阳是党中央、国务院批准建设的我国唯一的科技城，科技城并非在北上广，绵阳九院是我国的科学院，也是我国目前唯一的核武器研制单位，因为有绵阳九院的影响，因此建立科技城，绵阳有数十家研究院、20 多万的科技工作者，有“西部硅谷”的美誉。

3.绵阳除了科技发达，也涌现了很多名人典故，被称为“富乐之乡”，当年刘备入蜀，与刘璋在富乐山（位于绵阳）相会，二人喝酒后很开心，四川的酒美，风景也优美，看到良田沃野、一派富庶的场景，刘备说“富哉！今日之乐乎！”因此这座山起名为富乐山，绵羊就有了“富乐之乡”的美誉。

3.攀枝花

位于四川川西南、滇西北接合部，是全国唯一以花命名的城市，享有“花是一座城，城是一朵花”的美誉。攀枝花是一座因矿而建、因钢而兴的新兴工业城市，矿产资源十分丰富，其中钛、钒储量分别居世界第一和世界第三位，是国内第一、世界第二的钒制品生产基地以及国内最大的全流程钛工业基地。

【解析】攀枝花：

1.位于四川川西南、云南西北接合部，是全国唯一以花命名的城市（其他城市都不是以花命名），攀枝花本身是一种植物，又称木棉，开花是红色的，特别美丽娇艳。攀枝花市原来的名字是渡口市，因为有很多攀枝花树，因此得名攀枝花市，市花是攀枝花。

2.20 世纪 60 年代，我国开展大三线（根据战备制定的方针）建设，攀枝花是重中之重，从而建设起来，建设需要大量钢铁，在攀枝花市建设了大型的钢铁企业，即攀钢。攀枝花市矿产资源十分丰富，其中最为典型的是钛（储量居世界第一）、钒（储量居世界第三），是国内第一、世界第二的钒制品生产基地以及国内最大的全流程钛工业基地（发展出的特色产业具有领先地位）。

4.宜宾

地处四川、云南、贵州三省接合部，金沙江、岷江、长江三江交汇处，素有“万里长江第一城、中国酒都、中华竹都”的美誉。

【解析】宜宾：

1.宜宾除了有五粮液，还有宜宾燃面，东北地区很多饭店都有，味道很好，价格也不贵。

2.宜宾的地理位置优越，地处四川、云南、贵州三省接合部，金沙江、岷江、长江三江交汇处，水运十分便利，素有“万里长江第一城”之称。长江很长，各个江段都有自己的名字，宜宾之前称为金沙江，长江上游没有较大的城市，宜宾是长江流经的第一座较大的城市。

3.宜宾也产酒，是酒文化的发祥地，名酒辈出，如五粮液、叙府酒都是宜宾的，被称为中国酒都。

4.因为宜宾独特的地理位置，位于长江干流的起点，独特的气候条件特别适合竹子生长，宜宾有“中华竹都”之称，著名景点是蜀南竹海，竹子丰富，因为其独特优势，发展出独特的饮食，图为宜宾的全竹宴，里面的菜都与竹子相关。

5.德阳

地处四川成都平原腹心地带，是国家全面创新改革试验区、中国重大装备制造业基地、国家首批新型工业化产业示范基地和四川省重要的工业城市，是世界最大的铸锻钢制造基地。境内有三星堆古蜀文明遗址、德阳文庙、白马关庞统祠、黄继光纪念馆、“大孝之乡”中国德孝城等。

【解析】德阳：和攀枝花一样，也是因为国家开展大三线建设而建设起来的。

1.当时全国 45%以上的大型轧钢设备都是在德阳生产的，德阳是世界上最大的铸锻钢制造基地，德阳的发展与重工业有关，是中国重大装备制造业基地、国家首批新型工业化产业示范基地和四川省重要的工业城市。

2.德阳文化悠久：

（1）德阳境内有三星堆古蜀文明遗址：因此德阳称为“古蜀之源”，习近平总书记也去了三星堆遗址新馆进行参观，三星堆对于我国文明很重要，出土的文物与众不同，吸引了很多游客前去参观，三星堆遗址是我国西南地区范围最大、延续时间最长、文化内涵最丰富的遗址，属于非常重要的古文明，目前还有很多未解之谜。

（2）德阳文庙：文庙是祭祀孔子的寺庙，又称孔庙，我国很多地方都有孔庙。最大的孔庙位于山东（孔子老家，孔子是山东人），第二大的孔庙位于北京，第三大文庙位于四川德阳。

（3）白马关庞统祠：庞统是三国时期刘备手下重要的谋士，称为凤雏，诸葛亮称为卧龙，两人都非常有智慧。

（4）黄继光纪念馆：英雄人物黄继光舍身堵住敌人的枪口壮烈牺牲，黄继光纪念馆位于四川省德阳市中江县。

（5）“大孝之乡”中国德孝城：德阳有很多德孝文化，德阳市孝泉镇有很多孝敬长辈的典故，“大孝之乡”中国德孝城位于德阳。

6.西昌

西昌市位于四川西南部，是全国最大彝族聚居区——凉山彝族自治州的首府，拥有“小春城”“航天城”的雅称。西昌卫星发射中心在 1984 年发射成功我国第一颗试验通信卫星。



【解析】西昌：位于四川西南部。

1.西昌是全国最大彝族聚居区——凉山彝族自治州的首府；甘孜州的首府是康定，阿坝州的首府是马尔康。

2.西昌卫星发射中心：发射了很多卫星，承担着重要的航天发射任务，被称为“航天城”。

3.西昌气候优越，年平均气温在 18℃左右，四季如春，由于云南昆明被称为“春城”，西昌被称为“小春城”。

4.西昌卫星发射中心在 1984 年发射成功我国第一颗试验通信卫星，即东方红二号，不能缺少关键词“试验通信”；我国的第一颗人造卫星是东方红一号，在 1970 年发射。

7.甘孜州

是新中国建立的第一个专区级少数民族自治州，是我国原生生态系统保留最完好、自然垂直带最完整以及全球温带生态系统最具代表性的地区。巴塘县茶洛地热田是我国三大地热田之一，稻城县皮洛遗址填补了全世界高海拔地区旧石器时代考古的一项空白。

【解析】甘孜州：

1.甘孜州的首府在康定，甘孜州是新中国建立的第一个专区级少数民族自治州（行政区划比较特殊的类型，就是在少数民族聚集的地方建立的自治州，就是第一个建立的少数民族自治州），1949 年建国，1950 年成立自治州，解放军入藏时经过甘孜，直接建立了少数民族自治州。如东北地区的吉林也有延边朝鲜族自治州，但是建立时间不如甘孜州早。

2.甘孜州位置靠西，海拔较高，有很多高山，形成了很多大雪山，是我国原生生态系统保留最完好、自然垂直带最完整以及全球温带生态系统最具代表性的地区，地势落差较大，自然环境比较好。如果考查生态，对应甘孜州。

3.巴塘县茶洛地热田是我国三大地热田之一（还有西藏羊八井、云南腾冲地热田）。

4.稻城县皮洛遗址：是川西高原上发现的一处大型旧石器时代的遗址，填补了全世界高海拔地区旧石器时代考古的一项空白，稻城海拔高，发现了旧石器时代的遗址，很值得考察研究。

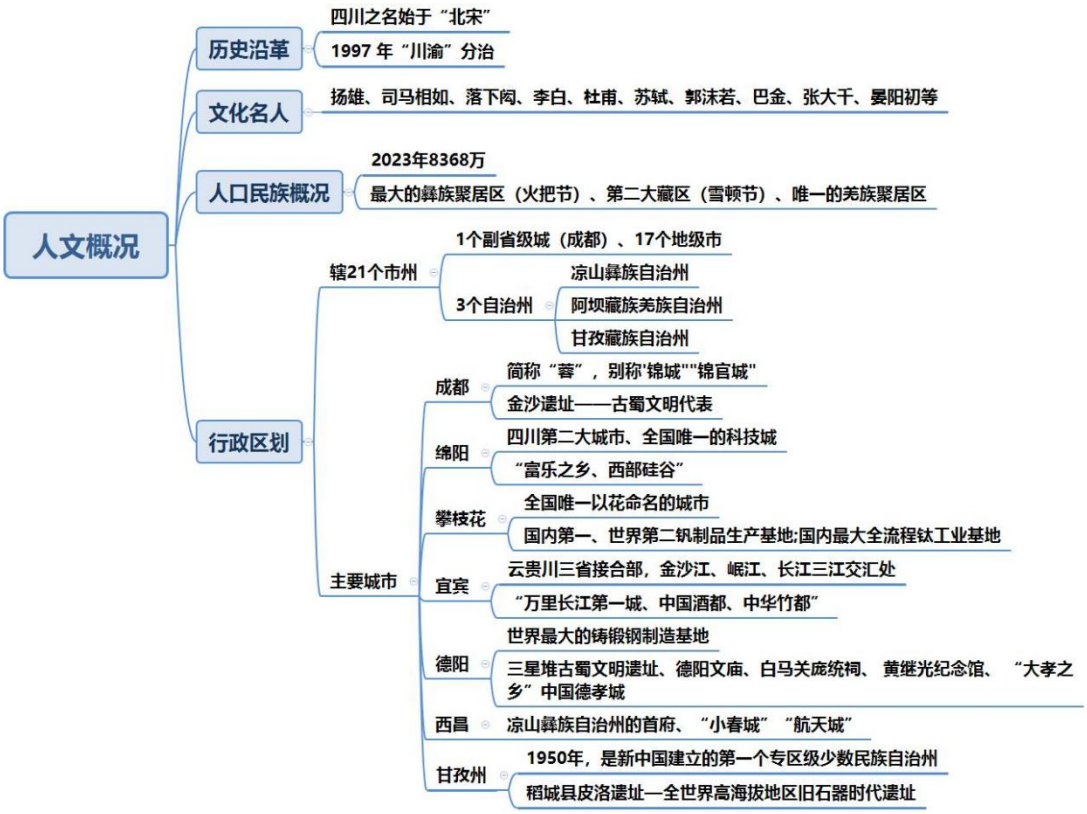

【注意】人文概况：

1.历史沿革：

（1）四川之名始于“北宋”。

（2）1997 年“川渝”分治。

2.文化名人：扬雄、司马相如、落下闳、李白、杜甫、苏轼、郭沫若、巴金、张大千、晏阳初等。此处列举了部分，能对应即可。

3.人口民族概况：

（1）2023 年：8368 万。

（2）主要记忆民族：最大的彝族聚居区（火把节）、第二大藏区（雪顿节）、唯一的羌族聚居区。

4.行政区划：

（1）辖 21 个市州：

①1 个副省级城市（成都）、17 个地级市。

②3 个自治州：凉山彝族自治州、阿坝藏族羌族自治州、甘孜藏族自治州。

（2）主要城市：

①成都：

a.简称“蓉”，别称“锦城”“锦官城”。

b.金沙遗址是古蜀文明代表。

c.蜀锦、蜀绣、漆器都很出名。

②绵阳：

a.四川第二大城市、全国唯一的科技城。

b.有“富乐之乡、西部硅谷”之称。

③攀枝花：

a.全国唯一以花命名的城市。

b.国内第一、世界第二钒制品生产基地；国内最大全流程钛工业基地。

④宜宾：

a.云贵川三省接合部，金沙江、岷江、长江三江交汇处。

b.“万里长江第一城、中国酒都、中华竹都”。

⑤德阳：

a.世界最大的铸锻钢制造基地。

b.三星堆古蜀文明遗址、德阳文庙、白马关庞统祠、黄继光纪念馆、“大孝之乡”中国德孝城。

⑥西昌：凉山彝族自治州的首府，有“小春城”“航天城”之称。

⑦甘孜州：

a.1950 年，是新中国建立的第一个专区级少数民族自治州（记忆）。

b.稻城县皮洛遗址是全世界高海拔地区旧石器时代遗址。

试题演练

1.（单选）下列关于我省少数民族地域分布的说法，错误的是（ ）。

A.回族在成都市、广元市、南充市等地都有散居

B.彝族主要分布在阿坝州、凉山州和攀枝花市

C.藏族主要分布在甘孜州、阿坝州和凉山州

D.羌族主要分布在甘孜州、阿坝州和绵阳市

【解析】1.选非题。B 项：主要分布在凉山州、乐山市、攀枝花市，当选。【选 B】

2.（单选）四川（ ）被誉为“万里长江第一城”，长江、金沙江、岷江在此交汇，形成三江汇流的壮阔景象。

A.阆中　　B.简阳

C.宜宾　　D.都江堰

【解析】2.C 项：四川宜宾被誉为“万里长江第一城”，当选。【选 C】

3.（单选）下列与蜀地文化相关的说法，错误的是（ ）。

A.纸币交子最早出现于蜀地

B.蜀绣兴盛于唐朝，衰败于清朝中期

C.三星堆遗址和金沙遗址都是古蜀国的都邑遗址

D.蜀地是道教发源地之一，青城山即为道教名山

【解析】3.选非题。A 项：交子最早出现于四川成都，排除。

B 项：蜀绣属于四大名绣之一，历史非常悠久，可以追溯到三星堆时期，三星堆出土的文物就有蜀绣的印迹，蜀国最早的君王蚕丛已经懂得养殖桑蚕。汉末三国时，蜀锦、蜀绣就已经驰名天下，非常珍贵，可以用于交换战马等物资，成为财政来源和经济支柱；唐代，南诏进攻成都，掠夺的对象就是金银、蜀锦、蜀绣以及工匠。宋代，遍及神州，技法高超，由于成都独特的自然条件，盛产丝帛，蜀锦、蜀绣冠名于天下；清朝中期，没有衰败，而是形成行业，尤其是成都的九龙巷、科甲巷蜀绣最为著名，当时官府所办的劝工局设置了刺绣科，范围非常广，当选。

C 项：两地出土的文物形态相近，同属于古蜀文明，是两个不同时期的中心遗址，排除。

D 项：道教在蜀中鹤鸣山（成都大邑县境内）发展，青城山是道教四大名山，排除。【选 B】

4.（单选）下列发生在四川省的事件，按照时间先后顺序排列正确的是（　）。

①西昌卫星发射中心首次成功发射

②成昆铁路全线建成通车

③黄龙、九寨沟被列入《世界自然遗产名录》

A.①③②　　B.②①③

C.②③①　　D.③②①

【解析】4.C、D 项：①是 1984 年，③是 1992 年，可以用排除法，按照时间先后排序①一定在③前面，排除。B 项：②是 1970 年 7 月 1 日，对于我国西南地区的经济建设、民族团结具有重要意义，正确排序为②①③，当选。【选 B】

5.（单选）自古以来，四川人才辈出。下列历史名人按时间排序正确的一组

是（ ）。

①司马相如②李冰③陈子昂④杨慎⑤苏轼

A.①②③④⑤　　B.②①③⑤④

C.①②④③⑤　　D.②①⑤④③

【解析】5.①司马相如是西汉人，②李冰是战国人，③陈子昂是唐代诗人，④杨慎是明代文学家，⑤苏轼是北宋人。

A、C 项：朝代歌“夏商与西周，东周分两段。春秋和战国”，则②排在第一位，排除。

D 项：“一统秦两汉（西汉和东汉），三分魏蜀吴，两晋前后延。南北朝（南朝和北朝）并立，隋唐五代传”应为②①③，排除。

B 项：“宋元明清后”，正确排序为②①③⑤④，当选。【选 B】

【注意】这些名人要能对应四川，人物的朝代全部记忆难度较大，记忆具有代表性的即可。这些除了结合省情考查（四川省的人物），文史也会涉及，如朝代歌需要记忆。

6.（多选）某旅行团拟推出一条四川省内的文化考古遗址旅游路线，可能出现在该旅游路线上的有（ ）。

A.殷墟遗址　　B.宝墩遗址

C.皮洛遗址　　D.良渚遗址

【解析】6.A 项：殷墟位于河南安阳，而非四川，排除。C 项：甘孜州，当选。B 项：成都市，当选。D 项：良渚在浙江杭州，举办了亚运会，排除。【选 BC】

7.（多选）下列关于德阳标志的描述，正确的是（ ）。

A.德阳中江是特级战斗英雄黄继光的故乡

B.广汉三星堆的发现曾经震惊中外

C.德阳是中国重装基地

D.德阳文庙是中国最大的孔庙

【解析】7.D 项：最大的文庙在山东，德阳市的文庙是第三大的，排除。【选 ABC】

8.（单选）古往今来，许多文学大家笔下都曾描写过四川，留下了许多赞美四川的诗句。下列关于这些诗句的说法，错误的是（ ）。

A.“君问归期未有期，巴山夜雨涨秋池”中的巴山指的是巴朗山

B.“芙蓉誉锦上，蜀戏冠天下”中的蜀戏包含变脸、吐火、滚灯等

C.“九天开出一成都，万户千门入画图”中的成都在古代又被称作蓉城、锦官城等

D.“锦江滑腻蛾眉秀，幻出文君与薛涛”中的文君、薛涛与花蕊夫人、黄娥并称蜀中四大才女

【解析】8.选非题。A 项：巴山不是巴朗山，而是川东一带的山，川东一带古属巴国。巴山泛指某一块区域，可以理解为大巴山一带；巴朗山位于阿坝州，当选。

B 项：川剧有变脸、吐火、滚灯等绝活，属于蜀戏，排除。

D 项：积累即可，西汉才女卓文君、唐代女诗人薛涛、五代女诗人花蕊夫人、明代才女黄娥都是四川历史上著名的才女，并称蜀中四大才女，排除。【选 A】

9.（2025 四川省属·判断）四川省面积最小的市（州）是自贡市，面积最大的市（州）是甘孜州。（ ）

【解析】9.【选√】

三、经济社会发展概况

1.经济方面

经济运行稳中向好。2024 年，四川省地区生产总值增长 5.7%，经济总量超过 6.4 万亿元，保持全国第 5 位。第一产业增加值增长 2.5%，规模以上工业增加值增长 6.6%，服务业增加值增长 6.3%。固定资产投资增长 2.4%，社会消费品零售总额增长 4.2%，进出口总额增长 9.4%、重回万亿元规模。

区域发展更趋协调。2024 年，成渝地区双城经济圈建设积厚成势，合作共

建重点项目完成年度投资 5200 亿元，联手打造 4 个世界级产业集群，川渝通办事项扩展至 355 项。成都都市圈发展能级提升，省域经济副中心、区域中心城市人口和产业承载能力持续增强。常住人口城镇化率突破 60%。入围全国百强县、百强区 20 个，居全国第 3 位。

【解析】

1.以下 2 个部分偏向时政，与四川省经济发展、政府工作报告有关。

2.经济社会发展概况：主要是 2025 年两会政府工作报告的内容，上半年考试没有考查，现在大家了解大体情况即可。

3.经济方面：就是经济发展很好，列举了相关成就。

（1）经济运行稳中向好，整体发展较好。

①总量和增速都双双突破：2024 年，四川省地区生产总值增长 5.7%，经济总量超过 6.4 万亿元，保持全国第 5 位（经济排名全国第五位，经济总量上了一个新的台阶）。

②经济发展比较好，拉动经济增长有三驾马车，分别是投资、消费和出口，第一产业增加值增长 2.5%，规模以上工业（第二产业）增加值增长 6.6%，服务业（第三产业）增加值增长 6.3%。固定资产投资增长 2.4%，社会消费品零售总额增长 4.2%，进出口（外贸）总额增长 9.4%、重回万亿元规模。此处数据不作为重点。

（2）区域发展更趋协调。

①经济要想发展更好，强调区域协调发展、城乡融合，2024 年，成渝地区（四川和重庆）双城经济圈建设快速发展，联手打造 4 个世界级产业集群（都是热门产业，包括汽车、电子信息、装备制造、特色消费品），通过区域产业协同，产业水平大幅提升。

②川渝通办事项扩展至 355 项：更加方便。

③成都都市圈发展能级提升，省域经济副中心、区域中心城市人口和产业承载能力持续增强：成都经济发展很好，人口越来越多，需要一定的承载能力，承载能力越来越强，就是成都越来越好。

④常住人口城镇化率突破 60%（记忆），即成都市 60%以上都是城市户口，城乡融合发展比较好。

⑤入围全国百强县、百强区 20 个，居全国第 3 位（记忆），成都随着人口越来越多，经济发展越来越好，县区也发展越来越好。

2.科技方面

发展动能加快汇聚。2024 年，29 项成果获国家科学技术奖励。六大优势产业、高技术制造业、绿色低碳优势产业增加值分别增长 6.9%、8.4%、10.2%，人工智能、生物技术、无人机、核技术应用等新兴产业增长 20%以上。国家先进制造业集群增至 5 个。新增国家高新技术企业 1200 家。产业投资实现两位数增长，技改投资增长 9.6%。经营主体新增 105 万户。

【解析】科技方面：发展动能加快汇聚。经济发展需要科技赋能，强调科技方面。

1.2024 年，29 项成果获国家科学技术奖励。六大优势产业、高技术制造业、绿色低碳优势产业（动力电池、钒钛产业的增速都比较高，四川天然气产能稳居全国第一，宜宾动力电池占全国 15%以上，雅安大数据产业算力规模也很大，绿色低碳成为经济增长的新支柱）增加值分别增长 6.9%、8.4%、10.2%，科技方面发展很好。

2.人工智能、生物技术、无人机、核技术应用等新兴产业（现在大力发展，如低空经济、氢能、新型储能都成为消费热点，这也是各地、我国大政方针支持的产业）增长 20%以上（考点）。

3.国家先进制造业集群增至 5 个（注意数量，位居西部地区第一），涵盖五个方面，如电子信息、高端能源装备、航空航天、生物医药等，如图所示。

（1）成渝地区电子信息先进制造业集群。

（2）成都和德阳高端能源装备集群，主要与新能源有关，如我国 60%核电产品、水电组件、火力发电机组、风力发电装备等。

（3）成都市软件和信息服务集群，国家级专精特新“小巨人”企业。

（4）成都地区生物医药集群，涵盖生物医药、中医药（排名第一）。

（5）成绵自凉航空航天集群，有亚洲最大的风洞群，世界上最大的大型铸锻钢制造基地以及航天发射场等，可以带动经济发展。

4.新增国家高新技术企业 1200 家。产业投资实现两位数增长，技改投资增长 9.6%。经营主体新增 105 万户。此处没有考点。

3.改革开放

改革开放纵深推进。2024 年，国资国企、要素配置、营商环境、公共服务等重点领域改革扎实有效。成都国际航空枢纽年旅客吞吐量增长 16.6%，突破 8700 万人次；货邮吞吐量增长 33%，突破 100 万吨。中欧班列（成渝）累计开行量突破 3.6 万列。外商直接投资实际到位资金 26.1 亿美元。

【解析】改革开放：改革开放纵深推进。可考性较低。

1.2024 年，国企改革，取得了相关成效，没有给出具体数据，一般不考。

2.成都国际航空枢纽年旅客吞吐量增长 16.6%（可能原文考查），说明旅客人数越来越多，增长较多，现在有两个机场，分别是天府机场和双流国际机场（太阳神鸟造型，天府机场面积很大，吞吐量很大），突破 8700 万人次（不会考查这一具体数据）。

3.货邮吞吐量增长 33%，突破 100 万吨。中欧班列（成渝）累计开行量突破 3.6 万列。外商直接投资实际到位资金 26.1 亿美元。此处没有考点，是政府工作报告的内容，重点是经济方面。

4.民生方面

民生保障水平提升。2024 年，四川省城乡居民人均可支配收入分别增长 4.7%、6.6%。财政民生支出占比保持在 65%以上，30 件年度民生实事全面完成。城镇新增就业 106 万人，城镇调查失业率平均为 5.3%。脱贫地区农村居民人均可支

配收入增长 6.8%。基础养老金、居民医保、城乡低保等民生政策提标。人均预期寿命达到 78.5 岁。

【解析】民生方面：民生保障水平提升。2024 年，四川省城乡居民人均可支配收入分别增长 4.7%、6.6%（说明大家生活越来越好）。城镇调查失业率平均为 5.3%（低于全国控制目标 0.7%，说明控制失业率较好，很多人都能有工作）。脱贫地区农村居民人均可支配收入增长 6.8%（收入增加，生活越来越好）。基础养老金、居民医保、城乡低保等民生政策提标（人们生活越来越好，老有所依，生病也可以有保障）。人均预期寿命达到 78.5 岁。

（判断）2024 年，四川省地区生产总值增长 5.7%，经济总量超过 6.4 万亿元，保持全国第 4 位。（　）

【解析】本题不是真题。应为全国第五位，之前没有考政府工作报告，但是大纲有要求。【选×】

四、四川区域发展重要战略部署

1.“四化同步、城乡融合、五区共兴”发展战略

这是四川省委十二届二次全会作出的统揽四川现代化建设全局的发展战略，具体指坚持新型工业化主导、信息化引领、城镇化带动、农业现代化固本，推动信息化和工业化深度融合、工业化和城镇化良性互动、城镇化和农业现代化相互协调；……新型工农城乡关系；高水平推动成都平原、川南、川东北、攀西经济区和川西北生态示范区协同发展。

【解析】四川区域发展重要战略部署：经济发展强调区域协调发展。

1.“四化同步、城乡融合、五区共兴”发展战略是四川省委十二届二次全会作出的战略部署。“四化”具体指坚持新型工业化主导（工主）、信息化引领（息引）、城镇化带动（镇动）、农业现代化固本（农本，最基本的要求，农业要能让人吃得饱），口诀“工主、息引、镇动、农本”，即“四化同步”。

2.城乡融合：城镇发展进入瓶颈阶段，农村地区的人能攒住钱，在城市打工的人消费比较高，攒不下钱，吃喝穿都消费了，农村的人钱都攒起来了，有消费能力，我国强调城乡融合，让农村地区的人也能更好地共享发展成果，进入城镇。

3.五区共兴：高水平推动成都平原、川南、川东北、攀西经济区和川西北生态示范区协同发展。五个区域协同发展，一荣俱荣，全体都要发展，不能只发展一个，先富带动后富，都要发展。

4.掌握四化的含义、五区包括哪些即可，不会考查城乡融合。

2.“两高地、两基地、一屏障”

2023 年 7 月，习近平总书记来川视察时赋予四川的使命任务，即打造西部地区创新高地，打造保障国家重要初级产品供给战略基地，构筑向西开放战略高地和参与国际竞争新基地，筑牢维护国家生态安全的战略屏障。

【解析】“两高地、两基地、一屏障”：2023 年 7 月，习近平总书记来川视察时赋予四川的使命任务。

1.“两高地”：

(1) 打造西部地区创新高地：四川被赋予了打造西部地区创新高地的重任，就需要在科技、产业等方面取得重要成果。

(2) 构筑向西开放战略高地：从中欧班列可以看出，四川要向西开放，属于向西开放的战略高地。

2.“两基地”：

(1) 打造保障国家重要初级产品供给战略基地：初级产品指的是未经加工的原始产品，比如天然橡胶、原油、矿石、农副产品等，四川有紫色土壤，产量较高，要打造保障国家重要初级产品供给战略基地。

(2) 构筑参与国际竞争新基地：经济发展不能局限于国内，要与国际竞争。

3.“一屏障”：筑牢维护国家生态安全的战略屏障。四川位于长江上游，其生态安全关系全国人民，长江也被称为母亲河，四川有着重要责任。

4.记忆方法：从区位优势上，是西部地区创新高地、向西开放战略高地；由于独特地理条件，“两个基地”是初级产品供给战略基地，参与国际竞争新基地；“一屏障”是生态。

3.“四个发力”

2023 年 7 月，习近平总书记来川视察时对四川工作提出的重要要求，即在推进科技创新和科技成果转化上同时发力，在建设现代化产业体系上精准发力，在推进乡村振兴上全面发力，在筑牢长江黄河上游生态屏障上持续发力。

【解析】“四个发力”：科技发展需要同步发力，习近平总书记提出“四个发力”，分别是科技、产业、乡村、生态，是现在最关心的四个方面。

1.在推进科技创新和科技成果转化上同时发力：不仅要科技创新，还要转化为经济效益，常说科学技术是第一生产力，第一生产力能否转化为社会效益非常关键。

2.在建设现代化产业体系上精准发力：进行科技创新时，也要建设相关产业，在建设现代化产业体系上精准发力。

3.在推进乡村振兴上全面发力：产业发展好了，还要带动广大农村地区发展，在推进乡村振兴上全面发力。

4.在筑牢长江黄河上游生态屏障上持续发力：发展的同时也不能破坏生态环境，要筑牢生态屏障，四川作为黄河和长江上游，也要在筑牢长江黄河上游生态屏障上持续发力。

4.成渝地区双城经济圈

2020 年 1 月 3 日，习近平总书记主持召开中央财经委员会第六次会议，作出推动成渝地区双城经济圈建设、打造高质量发展重要增长极的重大决策部署。2021 年中共中央、国务院印发了《成渝地区双城经济圈建设规划纲要》。《纲要》主要内容如下。

（1）规划范围。包括重庆市的中心城区及万州、涪陵等 27 个区（县）以及

开州、云阳的部分地区，四川省的成都、自贡、泸州、德阳、绵阳（除平武县、北川县）、遂宁、内江、乐山、南充、眉山、宜宾、广安、达州（除万源市）、雅安（除天全县、宝兴县）、资阳等 15 个市。

（2）战略定位。尊重客观规律，发挥比较优势，把成渝地区双城经济圈建设成为具有全国影响力的重要经济中心、科技创新中心、改革开放新高地、高品质生活宜居地。

（3）发展目标。到 2025 年，成渝地区双城经济圈经济实力、发展活力、国际影响力大幅提升，一体化发展水平明显提高，区域特色进一步彰显，支撑全国高质量发展的作用显著增强。

到 2035 年，建成实力雄厚、特色鲜明的双城经济圈，重庆、成都进入现代化国际都市行列，大中小城市协同发展的城镇体系更加完善，基础设施互联互通基本实现，具有全国影响力的科技创新中心基本建成，世界级先进制造业集群优势全面形成，现代产业体系趋于成熟，融入全球的开放型经济体系基本建成，人民生活品质大幅提升，对全国高质量发展的支撑带动能力显著增强，成为具有国际影响力的活跃增长极和强劲动力源。

【解析】成渝地区双城经济圈：属于大纲的内容。

1.2021 年中共中央、国务院印发了《成渝地区双城经济圈建设规划纲要》。

2.规划范围：包括重庆市和四川省大多数城市。

3.战略定位（重点）：把成渝地区双城经济圈建设成为具有全国影响力的重要经济中心、科技创新中心、改革开放新高地、高品质生活宜居地（成渝地区非常适宜生活，大家的生活都很安逸，三个人也能打麻将）。是由于其独特地理位置所决定的。

4.发展目标：

（1）到 2025 年，成渝地区双城经济圈经济实力、发展活力、国际影响力大幅提升，一体化发展水平明显提高，区域特色进一步彰显，支撑全国高质量发展的作用显著增强。2025 年是大幅提升。

（2）2035 年是实力雄厚。

2024 年成渝地区双城经济圈目标：

坚持川渝“一盘棋”，聚焦“一体化”和“高质量”，围绕强化“四个功能”推进协同发展，做好“相互赋能、相向发展”大文章，以国家战略引领区域布局优化和发展能级提升；高水平、大力度推进成渝“氢走廊”建设。

经济承载和辐射带动功能、

创新资源集聚和转化功能、

改革集成和开放门户功能、

人口吸纳和综合服务功能

【解析】2024 年成渝地区双城经济圈目标：

1.坚持川渝“一盘棋”，聚焦“一体化”和“高质量”，围绕强化“四个功能”推进协同发展。

2.“四个功能”：经济承载和辐射带动功能、创新资源集聚和转化功能、改革集成和开放门户功能、人口吸纳和综合服务功能。“四个功能”对应经济发展，经济发展越来越好，承载能力越强，带动其他地区，不能只自己发展，不管别人，要先富带动后富；进行科技创新，把创新资源聚集在一起，然后转化为成果；不能故步自封，要改革开放，改革开放发展越来越好，人口越来越多，要服务好，就是人口吸纳和综合服务功能。强化就是围绕“四个功能”。

3.做好“相互赋能、相向发展”大文章，以国家战略引领区域布局优化和发展能级提升；高水平、大力度推进成渝“氢走廊”建设。氢能是最清洁的能源，是现在很关注的，要大力推进成渝“氢走廊”建设。

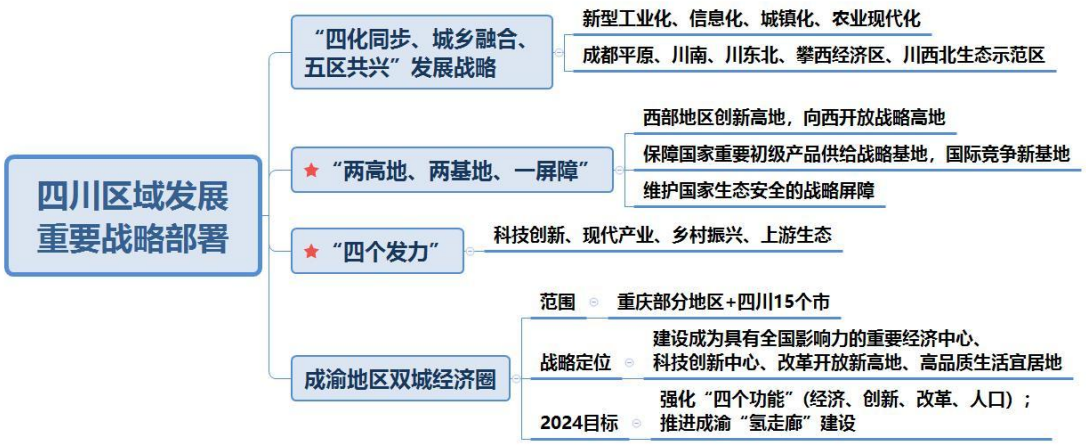

【注意】四川区域发展重要战略部署：时政考点。

1.“四化同步、城乡融合、五区共兴”发展战略：

（1）四化：新型工业化、信息化、城镇化、农业现代化。

（2）五区：成都平原、川南、川东北、攀西经济区和川西北生态示范区。

2.“两高地、两基地、一屏障”：

（1）两高地：西部地区创新高地，向西开放战略高地。

（2）两基地：保障国家重要初级产品供给战略基地，国际竞争新基地。

（3）一屏障：维护国家生态安全的战略屏障。

3.“四个发力”：科技创新、现代产业、乡村振兴、上游生态。

4.成渝地区双城经济圈：

（1）范围：重庆部分地区+四川 15 个市（涵盖了大部分地区）。

（2）战略定位：建设成为具有全国影响力的重要经济中心、科技创新中心、改革开放新高地、高品质生活宜居地。

（3）2024 目标：强化“四个功能”（经济、创新、改革、人口）；推进成渝“氢走廊”建设。

试题演练

1.（多选）推动治蜀兴川再上新台阶，必须坚持以成渝地区双城经济圈建设为总牵引。党中央、国务院对成渝地区双城经济圈建设的战略定位包括（　）。

A.改革开放新高地

B.高品质生活宜居地

C.具有全国影响力的科技创新中心

D.具有全国影响力的重要经济中心

【解析】1.【选 ABCD】

2.（多选）2023 年 7 月 27 日，习近平总书记在四川考察时对四川各项工作提出了“四个发力”。“四个发力”指的是在推进科技创新和科技成果转化上同时发力、（　）。

A.在供给侧改革和系统部署上接续发力

B.在建设现代化产业体系上精准发力

C.在推进乡村振兴上全面发力

D.在筑牢长江黄河上游生态屏障上持续发力

【解析】2.“四个发力”是科技成果发力，之后要形成产业，要在产业上精准发力，产业发展好了之后要乡村振兴，在乡村振兴上发力，作为长江和黄河的上游，要在生态屏障上发力。A 项：范围很大，类似国务院发文的表述，从整体大的目标、内需的角度（供给和需求）而言，排除。【选 BCD】

3.（多选）2023 年 7 月，习近平总书记来川视察时对四川作出战略擘画，赋予四川的使命任务包括（　）。

A.打造西部地区创新高地

B.打造保障国家重要科技产品供给战略基地

C.构筑向西开放战略高地和参与国际竞争新基地

D.筑牢维护国家生态安全的战略屏障

【解析】3.赋予四川的使命任务包括“两高地、两基地和一屏障”。B 项：应为打造保障国家重要初级产品供给战略基地，初级产品与农业有关如粮食以及矿产等，依据四川自身特点而言，有很多矿产资源，可以直接销售，并非重要科技产品，排除。【选 ACD】

【注意】

1.课后答疑：微博或小红书@粉笔老付。

2.考情：国情+省情一般考查 5 题左右，国情一般考查 1 题，省情一般考查 3-4 题。

3.如果认为抓不住重点，课后可以结合助教笔记来看，本节课的第三部分和第四部分比较宽泛，可考性不强，重点是前半部分；课后想要积累四川省的时政（积累四川省情），可以关注四川省的时政课；时政内容重点是看全国时政，考查全国时政较多，不涉及大事的话，一般不考查四川时政。

遇见不一样的自己

Be your better self