粉笔直播课

理论攻坚-国情常识

（笔记）

主讲教师：付佳男

授课时间：2025.07.14

粉笔事考·官方微信

理论攻坚-国情常识（笔记）

【答案汇总】

1-5：DCCCC；6-10：CBCD×

【注意】

1.课后听回放或日常有任何不懂的问题可以在老师微博或小红书@粉笔老付提问。

2.考情：

（1）结合四川新大纲，国情部分考查相对不多，如联考一般考查一题左右，但有的地市单独命题，可能会考查 2 题左右，整体上国情非重点，重点是省情，国情+省情一共可能是 5 题左右。注意：有些地市如宜宾、阿坝可能会考查市情，但比较少，主要还是省情和国情。

（2）省情和国情部分难度较低，一般是纯记忆，如四大高原、四大平原，可以结合图片、导图记忆。

第七篇　国情省情

第一章　国情常识

第一节　国土与资源概况

一、国土概况

（一）地理位置

1.位置

从东、西半球看，我国位于东半球；从南、北半球看，我国位于北半球。

从海陆位置看，我国位于亚洲东部、太平洋西岸。

【解析】

1.整个地球分为东西半球和南北半球。我国位于东半球、北半球，可以记忆为“东北”。

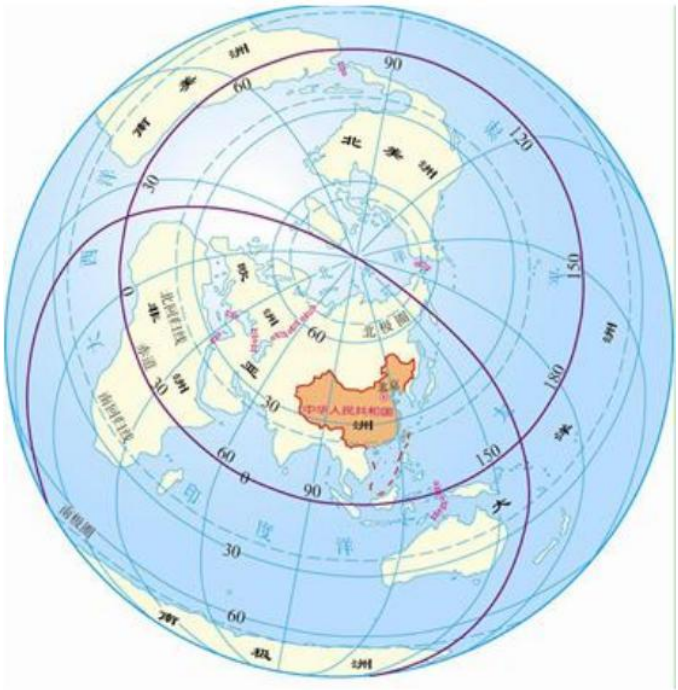

（1）从东、西半球看，我国位于东半球。东西半球的分界线是西经 20°到东经 160°，在这一区间之内为东半球，在这一区间之外为西半球。我国在这一区间之内，因此我国位于东半球。

（2）从南、北半球看，我国位于北半球。赤道以北是北半球，赤道以南为南半球。我国在赤道以北，位于北半球。

2. 从海陆位置看，我国位于亚洲东部、太平洋西岸。

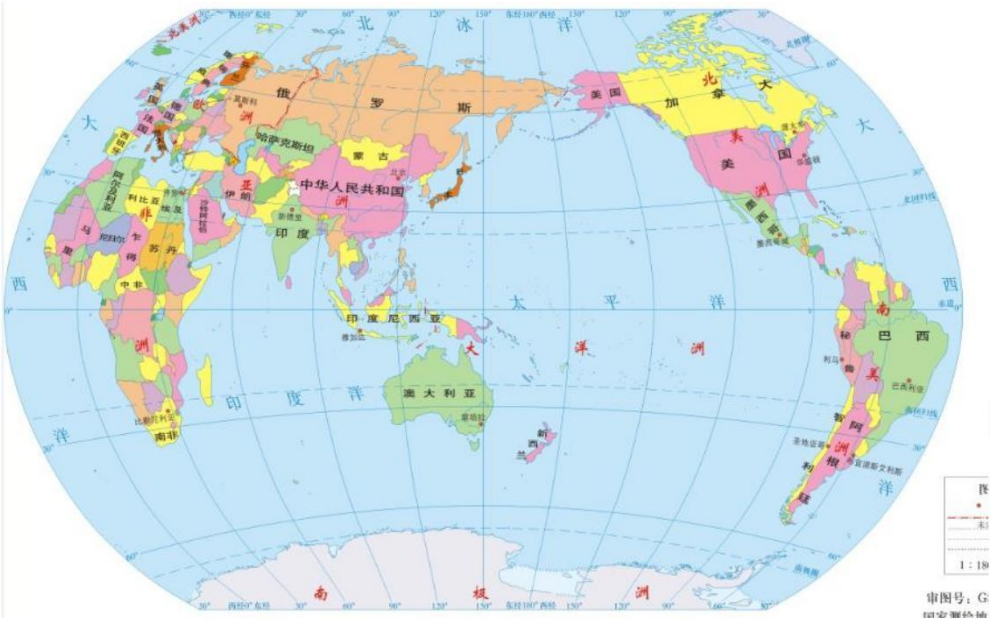

（1）我国位于世界上最大的大洲——亚洲，具体位于亚洲东部，如我国踢

足球踢的是东亚四国赛。

（2）我国位于太平洋（世界上最大的海洋）西岸。从地图上来看，左西右东，我国位于太平洋西岸。

3. 上图中的赤道南北有两条虚线，即南北回归线，其中北回归线穿过我国。考点——北回归线穿过我国的省份，可以记忆为“云台两广”，即云南、台湾、广西、广东。这四个省份都位于我国南部，注意北回归线不是穿过我国北部。

2. 邻国

陆地接壤的邻国 14 个：越南、老挝、缅甸、印度、不丹、尼泊尔、巴基斯坦、阿富汗、塔吉克斯坦、吉尔吉斯斯坦、哈萨克斯坦、俄罗斯、蒙古和朝鲜。

隔海相望的国家 6 个：韩国、日本、菲律宾、马来西亚、印度尼西亚和文莱。

【解析】邻国：我国有陆上邻国，也有海上邻国。

1. 陆上邻国：14 个。口诀——俄蒙朝，越老缅，印尼不出汗，找四个斯坦看一看。

（1）东北部：

①朝鲜：“雄赳赳，气昂昂，跨过鸭绿江”，我国支援的就是朝鲜，朝鲜是我国的邻国。

②俄罗斯、蒙古国（原来是我国的，后来分了出去）。

（2）西部：

①三个“斯坦”：哈萨克斯坦、吉尔吉斯斯坦、塔吉克斯坦。注意：中亚五国的哈萨克斯坦、吉尔吉斯斯坦、塔吉克斯坦和我国挨着，土库曼斯坦和乌兹别克斯坦不是我国的邻国，可以记忆为“突兀”。

②阿富汗：阿富汗是我国的邻国，我国与阿富汗之间有一个瓦罕走廊。

③巴基斯坦：巴铁，巴基斯坦是我国的邻国。

（3）西南部：尼泊尔、印度、不丹。

①印度：多年未考查过，知道是我国的邻国即可。

②尼泊尔：我国和尼泊尔的分界线是世界上的最高峰——珠穆朗玛峰，珠峰的北坡属于我国，南坡属于尼泊尔。

③不丹。

（4）南部：缅甸、老挝、越南。注意，泰国、柬埔寨不是我国的邻国，可以记忆为“太监”。

2.海上邻国（隔海相望）：6 个——韩国、日本、菲律宾、文莱、印度尼西亚、马来西亚，记忆口诀“韩日、菲马、印尼莱”。考试可能会将海上邻国与陆上邻国进行混淆考查，注意区分。

3.边界点

最北端：黑龙江省漠河市北端的黑龙江主航道中心线上。

最东端：黑龙江省黑龙江与乌苏里江主航道中心线的汇合处。

最西端：新疆维吾尔自治区的帕米尔高原上。

最南端：海南省南沙群岛中的曾母暗沙。

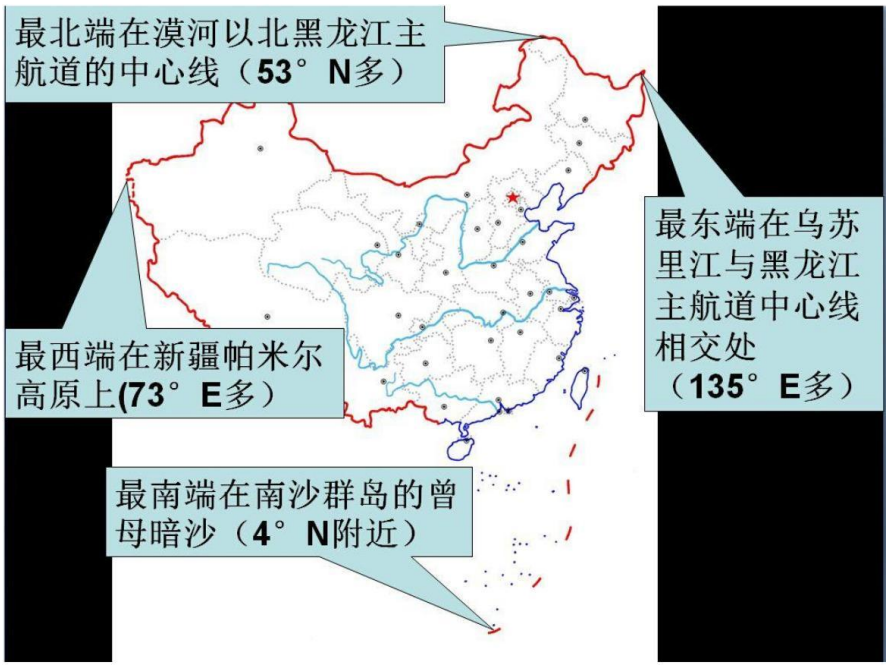

【解析】四至点/四个边界点：我国幅员辽阔，需要了解国家边界点。

1. 最北端：黑龙江漠河以北黑龙江主航道的中心线上。干扰项：黑河。

2. 最东端：乌苏里江与黑龙江主航道中心线相交处，此处有一个黑瞎子岛，黑瞎子岛是我国的最东端。

3. 最南端：南沙群岛的曾母暗沙。曾母暗沙是一个珊瑚礁岛，在我国最南端。我国最南端的城市：三沙市（2012 年成立，政府驻地在永兴岛，为了管理我国广大的南海海域）。

4. 最西端：新疆帕米尔高原上，具体是乌恰县乌兹别里山口（考查过）。

4. 陆地面积及临海

我国陆地面积约 960 万平方千米，居世界第三位。陆上国界线长达 2.2 万多千米。

我国大陆濒临的海洋，从北到南，依次为渤海、黄海、东海和南海。大陆海岸线长 1.8 万多千米。

【解析】

1. 我国陆地面积约 960 万平方千米，居世界第三位（第一是我国的邻国俄罗斯，第二是加拿大，第四是美国）；陆上国界线长达 2.2 万多千米。

2. 我国是一个海陆兼备的国家，除了有大片陆地，还有濒临海洋，我国大陆濒临的海洋，从北到南（面积从小到大），依次为渤海、黄海、东海和南海。大陆海岸线长 1.8 万多千米（比陆上国界线短）。口诀：渤黄东南。

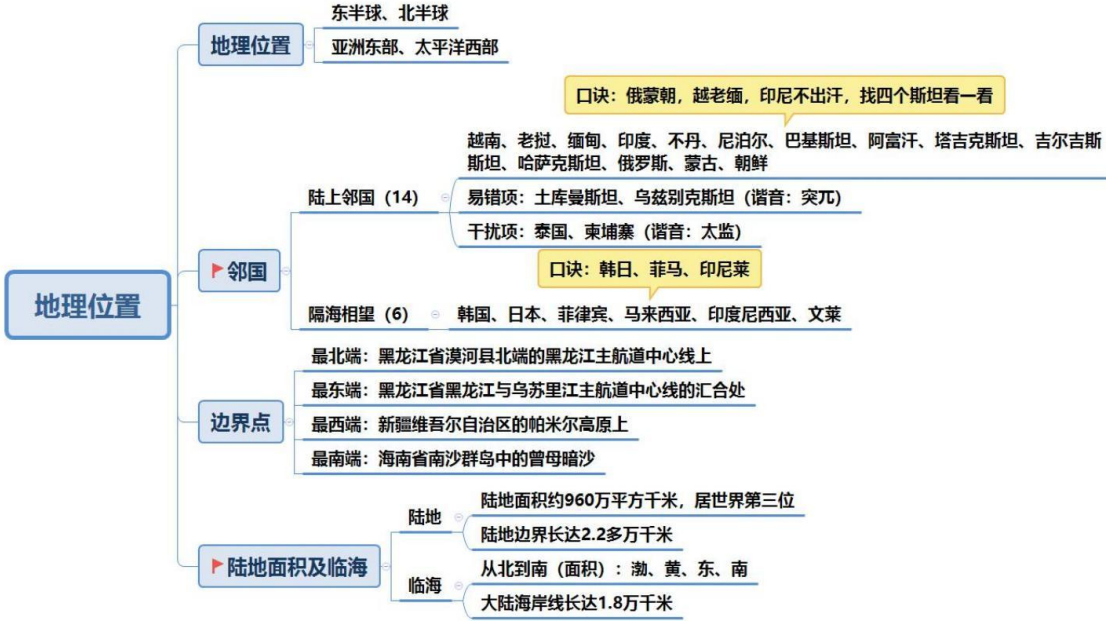

【注意】

1. 地理位置：

（1）东半球、北半球，记忆“东北”。

（2）亚洲东部、太平洋西岸。

2. 邻国：

（1）陆上邻国（14 个）：口诀“俄蒙朝，越老缅，印尼不出汗，找四个斯坦看一看”。易错项：土库曼斯坦、乌兹别克斯坦，可以记忆为“突兀”。

（2）隔海相望（6 个）：口诀“韩日、菲马、印尼莱”。

3. 边界点：

（1）最北端：黑龙江漠河以北黑龙江主航道的中心线上。

（2）最东端：黑龙江与乌苏里江主航道中心线的汇合处——黑瞎子岛。

（3）最西端：新疆帕米尔高原，具体是乌恰县乌兹别里山口。

（4）最南端：曾母暗沙。

4. 陆地面积及临海：

（1）陆地：

①陆地面积约 960 万平方千米，居世界第三位。

②陆地边界长达 2.2 多万千米。

（2）临海：

①从北到南（面积由小到大）：渤、黄、东、南。

②大陆海岸线长达 1.8 万千米。

（二）地形地势

我国幅员辽阔，地形类型多样，有山地、高原、平原、盆地和丘陵。地势总特征是西高东低，呈三级阶梯状分布。



【解析】

1. 我国幅员辽阔，地形类型多样，有山地、高原、平原、盆地和丘陵。四川山多，盆地不多但很大，从全国而言，山地占全国 1/3。易混概念：山区。山区的面积更大，包括山地、崎岖的高原、丘陵地带，占 2/3。

2. 地势总特征是西高东低，呈三级阶梯状分布。四川省位于西南，高山多，全国整体地势总特征是西高东低，呈三级阶梯状分布。

1. 三大阶梯

一二阶梯分界线	昆仑山脉—祁连山脉—横断山脉
二三阶梯分界线	大兴安岭—太行山脉—巫山—雪峰山

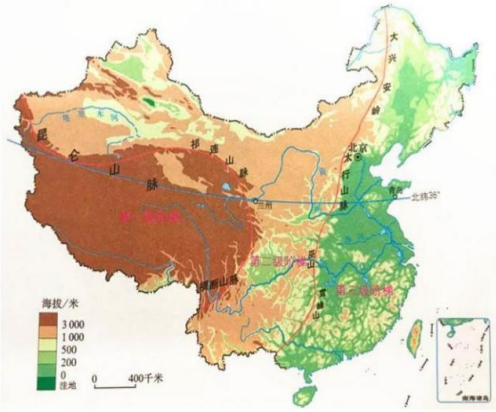

【解析】三大阶梯：两条阶梯分界线。

1. 阶梯分界线：一二阶梯分界线为昆仑山脉—祁连山脉—横断山脉；二三阶梯分界线为大兴安岭—太行山脉—巫山—雪峰山。

（1）第一阶梯地势很高，平均海拔在 4000 米以上，有青藏高原、柴达木盆地。

（2）第二阶梯有塔里木盆地、准噶尔盆地、四川盆地，高原有内蒙古高原、黄土高原、云贵高原。

（3）第三阶梯地势相对不高，如三大平原（东北、华北、长江中下游）都在第三阶梯，也有丘陵，如山东丘陵、辽东丘陵、江南丘陵。

2. 把握细节：

（1）昆仑山：神话小说中常提到昆仑山，相传里面住着西王母，有中华龙脉之称，昆仑山被称为“万山之祖”。

（2）祁连山：如河西走廊在祁连山北部，是一个狭长的区域，其能够发展绿洲农业主要源于祁连山上的冰山雪水融化、灌溉。

（3）横断山：一系列南北走向的山脉组成。

（4）太行山：太行山的西边是山西省，东边是河北省，注意不是山东省。

2. 四大高原

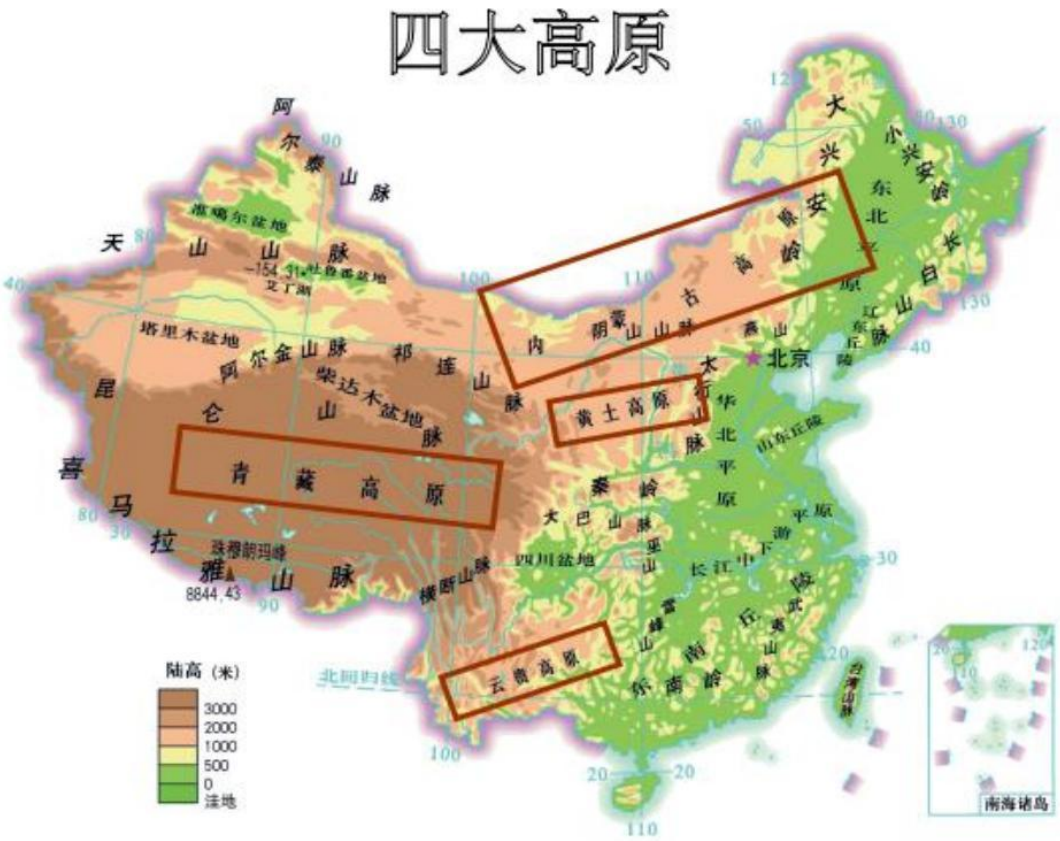

【解析】四大高原：需要知道哪四个高原，其中常考的是青藏高原和云贵高原。

1. 青藏高原：核心词——高、大。

（1）青藏高原位于第一阶梯，平均海拔在 4000 米以上，是世界上海拔最高的高原，有“世界屋脊”的称号。

（2）青藏高原除了高、大外资源也很丰富。

①水能丰富：青藏高原高，流水落差大，水能丰富，如三江源，长江、黄河、澜沧江都发源于青藏高原。

②地热能丰富：如四川部分属于青藏高原，常发生地震，因为位于亚欧板块和印度洋板块的碰撞挤压处，地质活动非常活跃。

③太阳能丰富：去川西北如阿坝旅游后回来会有高原红，因为这个地方海拔高，大气对于太阳的削弱作用比较弱，紫外线强，太阳能丰富。

（3）远看是山，近看成川——青藏高原。远看是一座座高山，走近之后内部高度相差不大，一马平川。

2. 内蒙古高原：中国第二大高原。内蒙古高原地势平坦，有一望无际的大草

原，畜牧业发达，我国知名的奶类企业如蒙牛、伊利都在这里建厂。内蒙古高原的沙漠也比较多，面积大，古代沙漠被称为“瀚海”。

3. 黄土高原：黄土高原的黄土多，这不是很好的土，非常疏松，一旦下雨就会被地表冲刷，这里是我国水土流失最为严重的地区，黄土高原是我国黄土最大的集中区，“千沟万壑、支离破碎”形容的就是黄土高原。

4. 云贵高原：

（1）云贵高原位于我国西南地区，我国西南地区石灰岩多，石灰岩在流水的不断侵蚀作用下就形成了石林、溶洞等景观，这就是喀斯特地貌。喀斯特地貌因为流水侵蚀所形成，典型的是云南石林、贵州黄果树瀑布。我国最早对于喀斯特地貌进行记载的著作是明代徐霞客《徐霞客游记》。

（2）天无三日晴，地无三尺平——云贵高原，具体指的是贵州省，贵州省一年阴雨天有 200 来天，而且大江大河多，地形崎岖，故是天无三日晴，地无三尺平。

（3）云贵地区有一个特殊景观——坝子，中间是凸起的小山，周围是一小块平原，用来种地，解决粮食问题。

名称	特征
青藏高原	“世界屋脊”；雪山延绵，冰川广布；水能、地热能、太阳能资源丰富
内蒙古高原	中国第二大高原；戈壁、沙漠、草原广布；地势平坦，畜牧业发达
黄土高原	植被稀疏，水土流失严重；千沟万壑，支离破碎
云贵高原	喀斯特地貌，有石林、溶洞景观等

【注意】图 1 都是一座座雪山，对应青藏高原；图 2 是一望无际的草原，对应内蒙古高原；图 3 满眼都是黄土，对应黄土高原；图 4 是石林，对应云贵高原。

3. 四大盆地

名称	特征
塔里木盆地	世界第一大内陆盆地；内有塔克拉玛干沙漠、塔里木河；雅丹地貌
准噶尔盆地	中国第二大盆地，内有额尔齐斯河
柴达木盆地	富含盐、石油、金属矿藏，有“聚宝盆”之称
四川盆地	又称“紫色盆地” 成都平原被誉为“天府之国”

【解析】四大盆地：塔里木盆地、准噶尔盆地、柴达木盆地、四川盆地。

1. 塔里木盆地：

（1）特征：大。塔里木盆地是我国最大的盆地，也是世界上第一大内陆盆地。

（2）如图，塔里木盆地中有很多小点点，这代表的是沙漠，具体是塔克拉玛干沙漠，这是我国面积最大的沙漠，其面积比一些省份还要大。图中还有蓝色的线，代表河流，塔里木盆地有一条河——塔里木河，这是我国最长的内流河（最终没有流入海洋）。

（3）特殊地貌：雅丹地貌。雅丹在维吾尔语中意思是“陡峭的小土丘”，是受风力侵蚀所形成的，因为西北地区风沙大，经过大风的侵蚀形成了雅丹地貌，我国的乌尔禾风城就是典型的雅丹地貌。区分：喀斯特地貌是流水侵蚀形成。

2. 准噶尔盆地：

（1）准噶尔盆地有一条河，这条河从南向北流，流入了北冰洋，是我国唯一一条注入北冰洋的河流，即额尔齐斯河。

（2）三山夹两盆：塔里木盆地、准噶尔盆地、阿尔泰山、天山、昆仑山，“三山夹两盆”形容的是新疆。

（3）吐鲁番盆地：吐鲁番盆地有艾丁湖，这是我国陆地最低点，海拔在-155米左右。

3. 柴达木盆地：

（1）柴达木盆地位于我国第一阶梯，海拔高，柴达木盆地是四大盆地中最高的盆地。

（2）柴达木盆地不仅地势高，资源也非常丰富，有丰富的石油、盐、金属矿藏，柴达木盆地又称“聚宝盆”。

4. 四川盆地：主要位于四川和重庆境内。

（1）四川盆地是四大盆地中最南的盆地，也是纬度最低的盆地、地势最低的盆地，海拔在 250-700 米之间。

（2）由于四川盆地的地质构造比较特殊，在四川盆地中有紫色砂岩，这种紫色的砂岩经过不断风化沉积形成紫色土壤，因此四川盆地又称“紫色盆地”。

（3）四川盆地中有成都平原，成都平原是我国重要的粮食产区，因为南方降水多，四川云雾大，且位于长江流域，盛产水稻、甘蔗、油菜等，发展繁荣，四川被称为“天府之国”。

4. 三大平原

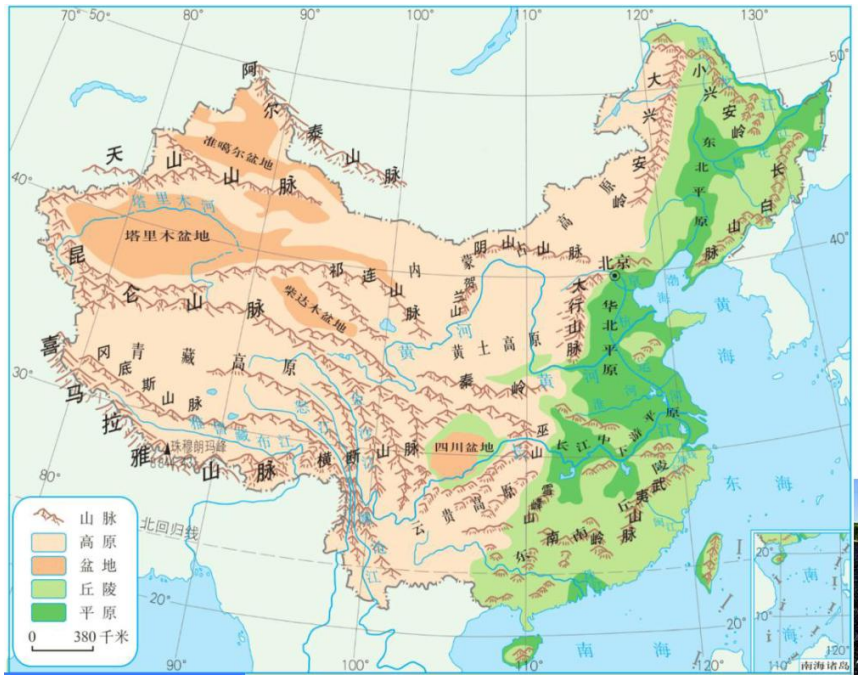

名称	特征
东北平原	由三江平原、辽河平原、松嫩平原三部分组成。 中国最大的平原。
华北平原	中国第二大平原 长芦盐场是我国海盐产量最大的盐场
长江中下游平原	河网纵横，湖泊众多，盛产稻米、油菜等。“鱼米之乡”

【解析】三大平原：东北平原、华北平原、长江中下游平原。

1. 东北平原：

（1）东北平原是我国最大的平原，由三江平原、松嫩平原、辽河平原三部分组成。

（2）东北平原是我国重要的粮食生产基地。东北有黑土，黑土非常珍贵，是地表植被经过长期腐蚀后演化所形成的，有机含量很高，土壤肥沃，东北的大米特别好吃，这是因为土好，而且一年就生产一季，相对就很好一些，东北的玉米、大豆在全国也很出名。

2. 华北平原：我国第二大平原，又称黄淮海平原，因为是黄河、淮河、海河冲击所形成的平原。华北平原有长芦盐场，是我国海盐产量最大的盐场，位于天津和渤海沿岸。

3. 长江中下游平原：位于我国南方，我国南方降水多，因此长江中下游平原有很多大江、大河、湖泊，渔业发达，盛产稻米，故称“鱼米之乡”。古代皇帝如乾隆、杨广下江南去的都是长江中下游平原，这里非常富庶，才子、美女多。

【注意】

1. 三大阶梯：

（1）一、二级阶梯：昆仑山脉-祁连山脉-横断山脉。

（2）二、三级阶梯：大兴安岭-太行山脉-巫山-雪峰山。

2. 四大高原：

（1）青藏高原：

①“世界屋脊”；水能、地热、太阳能丰富。

②远看是山、近看成川。

（2）内蒙古高原：我国第二大高原。

（3）黄土高原：多沟坎，千沟万壑、支离破碎。

（4）云贵高原：喀斯特地貌，《徐霞客游记》最早记录喀斯特地貌；阴雨连连石灰岩，天无三日晴，地无三尺平，石灰岩多，形成喀斯特地貌。

3. 四大盆地：

（1）塔里木盆地：

①世界第一大内陆盆地，存在风蚀雅丹地貌。

②塔里木盆地中有塔克拉玛干沙漠，是我国最大的沙漠；塔里木河是我国最长的内流河。

（2）准噶尔盆地：额尔齐斯河，注入北冰洋。

（3）柴达木盆地：最高，有“聚宝盆”之称。

（4）四川盆地：

①紫色盆地。

②成都平原：“天府之国”。

4. 三大平原：

（1）东北平原：中国最大的平原。

（2）华北平原：又称黄淮海平原，是第二大平原。

（3）长江中下游平原：有“鱼米之乡”之称。

（三）重要河流

【解析】重要河流：我国很多河流都是自西向东流，河流很多，掌握一些比较重要的。

长江	发源于青藏高原唐古拉山脉，是我国长度最长的河流
	干流流经青、川、藏、滇、渝、鄂、湘、赣、皖、苏、沪11个省级行政区，注入东海

【解析】长江：

1. 长江发源于青藏高原上的唐古拉山（记忆“唐江”），如图，长江很长，全长 6300 多千米，是我国最长的河流，也是亚洲的第一长河。放眼世界，长江是第三长河，第一长河是非洲的尼罗河（非洲人民的母亲河），第二长河是南美洲的亚马孙（逊）河。

2. 长江很长，干流流经青、川、藏、滇、渝、鄂、湘、赣、皖、苏、沪 11 个省级行政区，注入东海，长江最终在上海注入东海，记忆“江东”。

3. 长江有数以千计的支流，如四川的岷江、嘉陵江，江西的赣江，湖南的湘

江等，都属于长江流域的支流，重点掌握两个。一个是嘉陵江，嘉陵江是流域面积最大的，记忆“面积大是嘉陵”，和长江的交汇处形成了一个比较大的城市——重庆；一个是汉江，长度最长，记忆“长度长是汉”，与长江交汇处形成了一个比较大的城市——武汉。

4. 长江很长，有分段，从源头到湖北宜昌为上游；从宜昌到江西湖口为中游；从湖口一直往下为下游，可能与黄河上中下游分段混淆考查。

黄河	发源于青藏高原巴颜喀拉山，是我国第二长河
	干流流经青、川、甘、宁、蒙、陕、晋、豫、鲁9个省级行政区，注入渤海

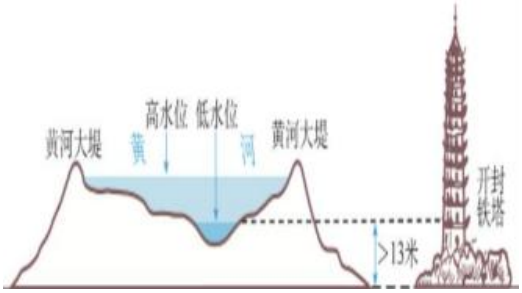

【解析】黄河：

1. 我国已经有 5000 多年的文明史了。黄河流域在我国 3000 多年中都是全国的政治、经济、文化中心，有一个称号是“母亲河”（了解即可，长江现在也有母亲河的说法）。

2. 黄河发源于巴颜喀拉山，是我国第二长河，仅次于长江，全长 5400 多千米。孕育了很多文化，如河洛文化、关中文化、齐鲁文化等，很多古城都在黄河流域。长江流域周围的古城不是很多。黄河流域有很多古城，如西安、河南郑州、洛阳、开封等，黄河流域孕育的古文明很多，历史影响非常重大。自古以来黄河

水患问题一直在治理。黄河最终在山东注入渤海，记忆“黄渤”。

3.黄河流经 9 个行政单位，干流流经青、川（既有黄河，又有长江）、甘、宁、蒙、陕、晋、豫、鲁 9 个省级行政区，注入渤海。9 个省级行政区是我国非常重要的经济地带，如黄淮海地区，山东、河南经济还行，再如山西太原（汾渭平原），这个地方自古以来农业发达，粮食、肉类的产量很高，占我国 1/3。内蒙古肉类产量多，华北平原粮食产量高；四川煤炭、天然气等基础能源多，再如内蒙、山西、陕西都是能源大省。整个黄河流域又被称为“能源流域”。四川有色金属很多，占我国一半以上，是能源大省。

5.黄河也很长，从源头一直到内蒙古河口镇为上游；从河口镇到桃花峪为中游；从桃花峪到入海口为下游。

6.黄河问题特别多，因为中间流经了黄土高原，黄土高原的黄土稀疏，一旦下雨就会被冲刷，泥沙流入黄河中，所以使得整个黄河成为了世界上含沙量最大的一条河流，去黄河里舀一碗水，可能半碗都是沙子，因此在黄河下游，地势平坦、水流速度慢，泥沙不断沉积，就形成了地上河/地上悬河。如图 2 是在河南开封境内的一段示意图，河堤比两岸高出 13 米，地上河非常严重。黄河出现问题，要重点治理，在黄河流域提出构建我国重要的生态屏障，黄河发源于三江源，所以有三江源国家公园，流经了祁连山，有祁连山国家公园。

珠江	中国南方最大的河流，发源于云贵高原上乌蒙山脉马雄山。珠江水系包括西江、东江、北江三大江，西江为珠江的主流
	主要流经云、黔、桂、粤等省区，最终注入南海

【解析】珠江：

1. 珠江是中国南方最大的河流，此处的南方指的是长江以南（肯定不如长江）。珠江水系包括西江、东江、北江三大江，西江是珠江的主流。

2. 珠江发源于云贵高原的乌蒙山（注意不是青藏高原）。主要流经云南、贵州、广西、广东，最终注入南海（记忆：珠南）。

（四）岛屿和半岛

三大岛屿	台湾岛	海南岛	崇明岛	
重要岛屿	舟山群岛	庙岛群岛	澎湖列岛	南海诸岛
三大半岛	山东半岛	辽东半岛	雷州半岛	

【解析】岛屿和半岛：考查非常简单，考查“之最”。

1. 三大岛屿：台湾岛、海南岛、崇明岛。其中，台湾岛（宝岛）是我国最大的岛屿。

2. 群岛（由很多个小岛组成）：我国有四大群岛，分别是舟山群岛、庙岛群岛、澎湖列岛、南海诸岛。其中，最大的群岛是舟山群岛，舟山群岛位于浙江宁波的东边，因此浙江成为了我国岛屿最多的省份。

3. 三大半岛（三面环海、一面连着陆地）：山东半岛、辽东半岛、雷州半岛。其中，最大的是山东半岛。

（五）主要山脉及走向

1. 东西走向：天山—阴山；昆仑山—秦岭；南岭。

2. 东北—西南走向：大兴安岭—太行山—巫山—雪峰山；长白山—武夷山；台湾山脉。

3. 西北—东南走向：阿尔泰山脉；祁连山脉。

4. 南北走向：贺兰山；六盘山；横断山脉。

5.弧形：喜马拉雅山脉。

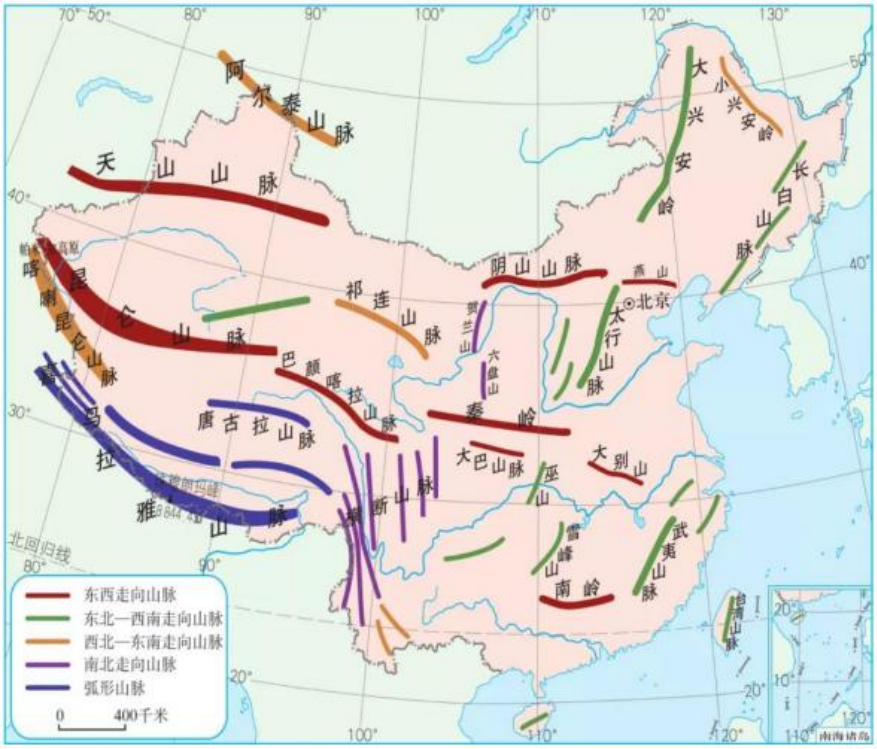

【解析】主要山脉及走向：四川考查很多。考查山脉走向，主要考查东西走向和东北-西南走向。

1.东西走向：东西走向的山脉有三列，天山-阴山是第一列，昆仑山-秦岭是第二列，南岭是第三列。

（1）天山："三山夹两盆"中，天山位于新疆中部，将新疆分为南疆和北疆，我国南北疆的分界线就是天山山脉。

（2）阴山：阴山下面呈"几"字形的流域即黄河，上面是内蒙古高原，内蒙古高原发展的是牧业，黄河流域水量充沛，农业很发达，发展的是农业种植业，因此阴山是我国传统农业和牧业的分界线。

（3）昆仑山（万山之祖）。

（4）秦岭：秦岭和淮河构成中国地理上必考的分界线——秦岭-淮河一线。

①秦岭-淮河一线是我国南北方的分界线，四川是南方，东北是北方，就是因为四川位于秦岭-淮河以南，东北位于秦岭-淮河以北。

②我国南北方在气温上也不一样，秦岭-淮河一线也是我国的1月份0℃等温线，这条线对于全国大多数地区而言年平均是0℃，秦岭-淮河以北低于0℃，秦岭-淮河以南高于0℃。

③秦岭-淮河一线也是我国年 800 毫米等降水分界线，这条线上的降水量大约是 800 毫米，秦岭-淮河以北低于 800 毫米，秦岭-淮河以南高于 800 毫米。南方坐船，北边骑马；南方种植水稻，北方是小麦；北方是甜菜，南方是油菜。

（5）南岭：上面是长江，下面是珠江，因此南岭也被称为长江和珠江的分水岭。

2. 东北-西南走向：图中绿色的山脉。

（1）大兴安岭-太行山-巫山-雪峰山，是我国二三阶梯分界线。

（2）长白山：东北地区最高山。

（3）武夷山：位于福建、江西交界处。

（4）台湾山脉：位于我国宝岛台湾。

3. 西北-东南走向：

（1）阿尔泰山：新疆最北端。

（2）祁连山：祁连山是一二阶梯分界线上的一座山，河西走廊发展绿洲农业主要依靠祁连山的冰雪融水来灌溉。

4. 南北走向：即纵向上，有三座，分别是贺兰山（我国 200 毫米等降水分界线）、六盘山、横断山（是一系列南北走向的山脉）。

5. 弧形：喜马拉雅山脉、唐古拉山。喜马拉雅山脉是世界上最高大的山脉（主峰是珠峰）。

6. 口诀：天山阴山昆仑山，秦岭南岭东西向（东西）；大兴太行巫雪峰，长白武夷台湾山（东北-西南）。阿尔泰山祁连山（西北-东南），贺兰六盘横断山（南北）；喜马唐古弧形山（弧形），珠穆朗玛世界颠。

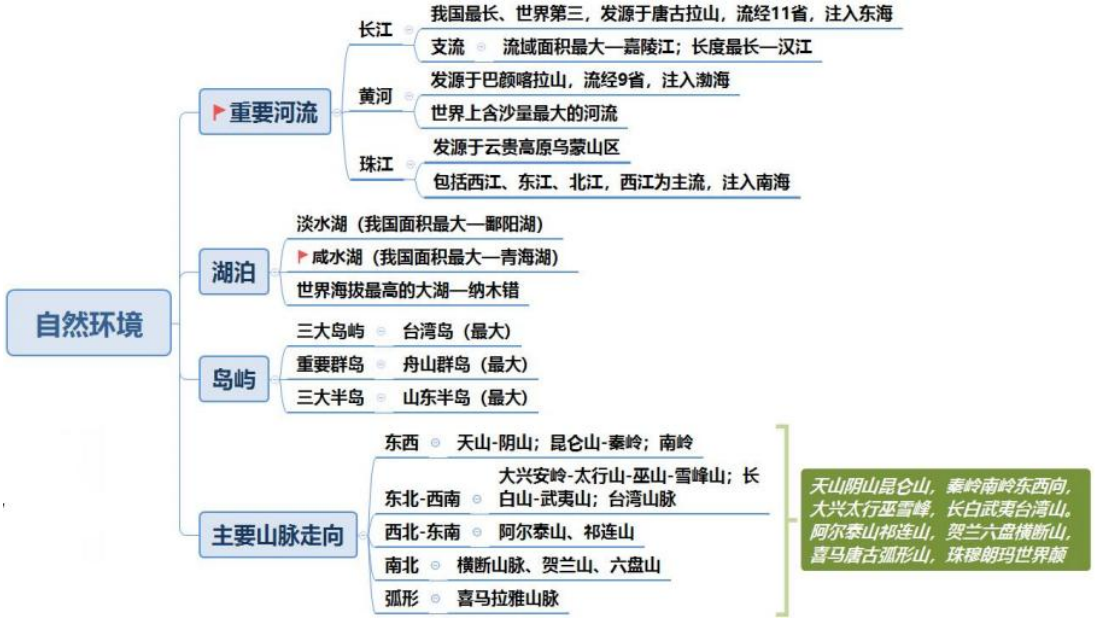

【注意】自然环境：

1. 重要河流：

（1）长江：

①我国最长、世界第三长河，发源于唐古拉山，流经 11 省，注入东海。

②支流：流域面积最大——嘉陵江；长度最长——汉江。

（2）黄河：

①发源于巴颜喀拉山，流经 9 省，注入渤海，记忆“黄渤”，我国主要粮食和肉类的供应。

②世界上含沙量最大的河流。

（3）珠江：

①发源于云贵高原乌蒙山区。

②西江为主流，注入南海。

2. 湖泊：

（1）淡水湖：我国面积最大的淡水湖是鄱阳湖。

（2）咸水湖：我国面积最大的咸水湖是青海湖，青海湖是我国最大的湖泊。

（3）世界海拔最高的大湖是纳木错。

3. 岛屿：

（1）三大岛屿：台湾岛（最大）。

（2）重要群岛：舟山群岛（最大）。

（3）三大半岛：山东半岛（最大）。

4. 主要山脉走向：

（1）东西：天山—阴山；昆仑山—秦岭；南岭。

（2）东北—西南：大兴安岭—太行山—巫山—雪峰山（二三阶梯分界线）；长白山—武夷山；台湾山脉。

（3）西北—东南：阿尔泰山、祁连山。

（4）南北：贺兰山；横断山、贺兰山、六盘山。

（5）弧形：喜马拉雅山脉。

（6）口诀：天山阴山昆仑山，秦岭南岭东西向；大兴太行巫雪峰，长白武夷台湾山。阿尔泰山祁连山，贺兰六盘横断山；喜马唐古弧形山，珠穆朗玛世界颠。

我国之最	内容	我国之最	内容
最高（大）高原	青藏高原	最大盆地	塔里木盆地
最大平原	东北平原	最长内流河	塔里木河
陆地最低点	艾丁湖	最长河流	长江
最大岛屿	台湾岛	最大群岛	舟山群岛
最大半岛	山东半岛		

二、资源概况

（一）土地资源

1. 绝对数量大，人均占有少。

2. 类型多样，耕地比重小。

3. 地区分布不均，保护和开发问题突出。

4. 利用情况复杂，生产力地区差异明显。

【解析】土地资源：必不可少，人类想要生存，需要土地资源来种植粮食。

1. 绝对数量大，人均占有少：我国的国土面积为 960 万平方千米，是世界第三大国，绝对数量大，但我国有 14 亿人，人均后资源就不多了。

2. 类型多样，耕地比重小：我国什么地形都有，但平原少，耕地比重非常小，比如贵州，是没有平原的省份，自古有“八山一水一分田”之说，意思是可以耕种的土地只占到贵州省总面积的 1/10。

3. 地区分布不均，保护和开发问题突出：比如上海寸土寸金，但新疆还存在大面积无人区。城市化进程很快，城市化建设会占用大量的耕地，所以保护和开发问题突出。

4. 利用情况复杂，生产力地区差异明显：每种土地适合种植的东西不一样，比如东北适合种植玉米、大豆，山东适合种植花生，华北其他地方是小麦，而南方是水稻。生产力地区差异明显，如很多地方是机械化生产，用联合收割机，甚至飞机，但山西生产力很落后，还是依靠人工。

（二）水资源

1. 人均水资源少，仅为世界平均水平的 1/4。

2. 水资源分布不均，南丰北缺。

3. 供应紧张，利用率低。

【解析】水资源：

1. 人均水资源少，仅为世界平均水平的 1/4，我国水资源在全世界范围来讲都是非常匮乏的，所以生活中一定要保护好水资源。

2. 不仅人均少，分布还不均，是典型的南丰北缺。既然水资源空间分布不均，就要跨流域调水，把南方的水资源调到北方去，即“南水北调”，但这无法从根源上解决问题，治标不治本，我国的水资源供应还是很紧张，利用率还是很低，很多地方依然缺水。

（三）矿产资源

1.我国地质条件多样，矿产资源丰富。钨、锑、稀土、钼、钒和钛等的探明储量居世界首位。

2.地区分布不均匀。如：煤主要分布在华北、西北、东北和西南地区，其中山西、内蒙古、新疆等省区最集中，而东南沿海各省则很少。

【解析】矿产资源：

1.我国地质条件多样，矿产资源丰富。钨、锑、稀土、钼、钒和钛等的探明储量居世界首位，四川的钒、钛非常多。

2.地区分布不均匀。如：

（1）煤：主要分布在华北、西北、东北和西南地区，东部沿海地区则很少。

（2）石油：我国著名的克拉玛依、大庆油田、胜利油田都在北方，沿海地区石油比较少，但是现在可以在海上开采石油。

（2）有色金属：四川的有色金属就比较多，北方的有色金属就稍微少一些。

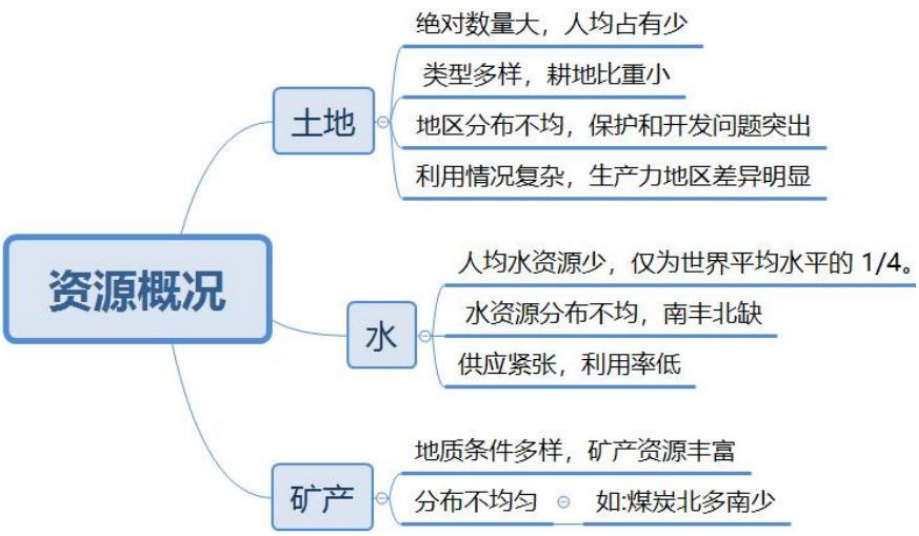

第二节　我国人文概况

一、行政区划

中华人民共和国的行政区域划分如下：全国分为省、自治区、直辖市、特别行政区；省、自治区、直辖市分为自治州、县、自治县、市；县、自治县、市分为乡、民族乡、镇。

目前中国有 34 个省级行政区，包括 23 个省、5 个自治区、4 个直辖市、2 个特别行政区。北京是中国的首都。

【解析】行政区划：

1. 我国国土面积很大，就需要划分很多行政区划，根据我国《宪法》规定，我国在行政区划上实行省、县、乡三级行政区划（没有市，但是行政级别有市）。

2. 省级行政区划：考试时不会考县、乡，重点考查省级。

（1）我国有 34 个省级行政区划，其中包括 23 个省（台湾属于省）、5 个自治区、4 个直辖市和 2 个特别行政区。如果考特别行政区，只有两个，香港和澳门。主要考查 5 个自治区和 4 个直辖市。

（2）5 个自治区：重点记忆时间节点。

①内蒙古自治区：1947 年成立，是成立时间最早的，在建国之前就成立了。

②新疆维吾尔自治区：1955 年成立。

③广西壮族自治区：1958 年成立。

④宁夏回族自治区：1958 年成立。

⑤西藏自治区：最晚成立，1965 年才成立。

（3）4 个直辖市：北京（首都）、上海、天津、重庆，记忆“北上天重”。广州、深圳都属于广东省，不是直辖市。

名称	简称	行政中心	名称	简称	行政中心
北京市	京	北京	湖南省	湘	长沙
天津市	津	天津	广东省	粤	广州
河北省	冀	石家庄	广西壮族自治区	桂	南宁
山西省	晋	太原	海南省	琼	海口
内蒙古自治区	内蒙古	呼和浩特	重庆市	渝	重庆
辽宁省	辽	沈阳	四川省	川/蜀	成都
吉林省	吉	长春	贵州省	贵/黔	贵阳
黑龙江省	黑	哈尔滨	云南省	云/滇	昆明
上海市	沪	上海	西藏自治区	藏	拉萨
江苏省	苏	南京	陕西省	陕/秦	西安
浙江省	浙	杭州	甘肃省	甘/陇	兰州
安徽省	皖	合肥	青海省	青	西宁
福建省	闽	福州	宁夏回族自治区	宁	银川
江西省	赣	南昌	新疆维吾尔自治区	新	乌鲁木齐
山东省	鲁	济南	香港特别行政区	港	香港
河南省	豫	郑州	澳门特别行政区	澳	澳门
湖北省	鄂	武汉	台湾省	台	台北

【注意】考查简称：不需要都记，掌握重点即可。

1. 河北简称为“冀”，经常提到“京津冀一体化”，“京津冀”即北京、天津和河北。大禹治水时分为九州，河北在冀州，故简称为“冀”，省会是石家庄。

2. 山西简称为“晋”，赵魏韩三家分晋，晋国就在山西，省会是太原。

3. 安徽简称为“皖”，安徽境内有古玩国，且有皖山皖水，省会是合肥。

4. 福建简称为“闽”，福建境内有闽江，且当地方言是闽南语，省会是福州。

5. 江西简称为“赣”，江西境内有赣江，省会是南昌。

6. 山东简称为“鲁”，山东号称齐鲁大地，省会是济南。

7. 河南简称为“豫”，河南古时候是豫州，省会是郑州。

8. 广西简称为“桂”，秦始皇统一中国以后在全国推行郡县制，在广西境内设立了两个郡，一个是桂林郡，一个是象郡，后来沿用了桂林郡中的“桂”字。

9. 四川简称为“川”或“蜀”，三国时期，蜀国所在地即四川，省会是成都。

10. 贵州简称为“贵”或“黔”，贵州之前是黔中道，境内有黔灵山，省会是贵阳。

11. 甘肃省简称为“甘”或“陇”，甘肃有陇山；成语得陇望蜀中的“陇”指的是甘肃。

二、人口

（一）数量

2025 年 1 月 17 日，国家统计局发布的数据显示：2024 年，全国出生人口为 954 万人，全年死亡人口为 1093 万人。年末全国人口为 140828 万人，比上年末减少 139 万人，减少幅度比上年收窄 69 万人。2024 年，全国出生人口为 954 万人，比 2023 年增加 52 万人，自 2017 年以来首次回升。

【解析】人口数量：不是重点，因为数据总是在变化。

1. 2025 年 1 月 17 日，国家统计局发布的数据显示：2024 年，年末全国人口为 140828 万人，比上年末减少 139 万人，减少幅度比上年收窄 69 万人。减少人口的幅度有所放缓。

2. 2024 年，全国出生人口为 954 万人，比 2023 年增加 52 万人，自 2017 年以来首次回升（时政考查）。这就意味着可能是我国的人口政策调整起作用了。

（二）分布

我国人口分布很不均匀。从黑龙江黑河到云南腾冲画一条直线，此线东南部人口稠密，西北部人口稀疏。

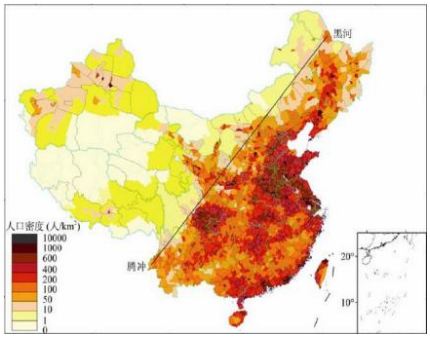

【解析】人口分布：

1.我国人口分布非常不均匀，从黑龙江黑河到云南腾冲画一条直线，这条线就构成了我国的人口分界线，此线东南部人口稠密，西北部人口稀疏。我国人口大省都在东南部，如四川、山东、河南、江苏、广东，都在这条线的东南部，因此人口非常多；西北部人非常少，非常稀疏，甚至存在无人区，因此我国人口分布非常不均匀。

2.这条线的提出者是胡焕庸，因此这条线也被称为胡焕庸线（人口分界线）。

三、民族

（一）构成

在我们伟大祖国的辽阔土地上，共同生活着 56 个民族。其中汉族人口最多，约占全国人口总数的 91.11%。其他 55 个民族人口较少，统称为少数民族。少数民族中，壮族人口最多。

我国的民族自治地方分为自治区、自治州、自治县三级。

【解析】

1.我国有 56 个民族，其中汉族人口最多，占到 91.11%，汉族人口占比最大，其余 55 个民族称之为少数民族，其中壮族人口最多，联想记忆“人口壮大的民族”。

2.我国的民族自治地方分为自治区、自治州、自治县三级。自治区，如内蒙古自治区、广西、宁夏、新疆、西藏自治区；自治州，如延边朝鲜族自治州；自治县。

（二）分布特点

汉族人口遍布全国各地，少数民族人口主要分布在西南、西北和东北地区。

我国的民族分布具有“大杂（散）居、小聚居、交错杂居”的特点。

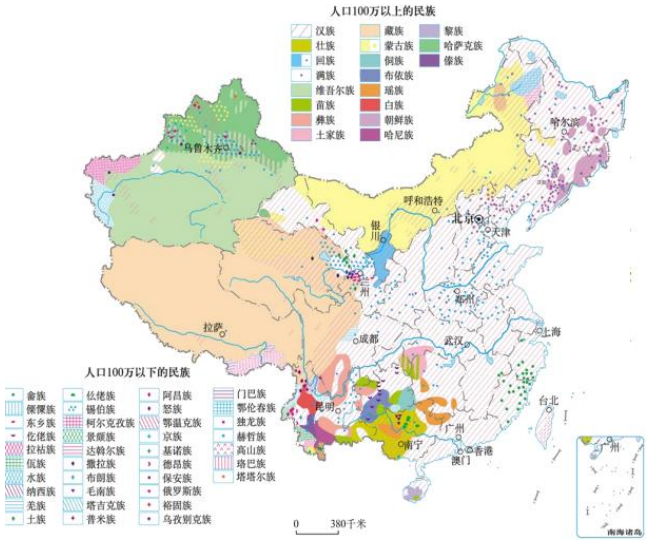

我国各民族的地区分布状况是：汉族的分布遍及全国，主要集中在东部和中部；在边疆地区，汉族多与各少数民族杂居在一起（图 2.8）。我国各少数民族主要分布在西南、西北和东北等边疆地区。从人口普查的情况来看，我国几乎没有一个县或市的居民是单一民族的。例如上海市虽以汉族为主，但是也有 37 个少数民族的居民。各民族大杂居、小聚居的分布特点，为各民族相互交往、团结合作、共同繁荣，提供了有利条件。

民族分布特点

汉族人口遍布全国各地，少数民族人口主要分布在西南、西北和东北地区（图1.19）。在某个民族聚居的地区，也有其他民族居住。人口普查资料表明，没有一个县或者市的人口是由单一民族构成的。我国民族分布具有“大散居、小聚居、交错杂居”的特点。

【解析】分布特点：

1. 少数民族人口主要分布在西南、西北和东北地区。如图 1，颜色明亮鲜艳的地方证明少数民族多，西南，四川羌族、彝族；贵州有布依族、苗族；云南大理白族；西北，新疆维吾尔族、哈萨克族很多；东北地区主要是满族、朝鲜族。我国少数民族主要分布在西南、西北、东北地区。

2. 我国的民族分布具有“大杂居、小聚居、交错杂居”或“大散居、小聚居、交错杂居”的特点，两种说法都正确，这是目前所使用的两种官方教材中都存在的说法，考试时出现哪个选哪个。

（三）少数民族特色节日

壮族——三月三歌节；回族——开斋节、古尔邦节；蒙古族——那达慕；藏族——雪顿节；彝族——火把节；傣族——泼水节。

壮族-三月三歌节　　回族-开斋节、古尔邦节　　蒙古族-那达慕

傣族-泼水节　　藏族-雪顿节　　彝族-火把节

【解析】少数民族特色节日：

1. 壮族（广西壮族自治区）：三月三歌节（法定节假日）。

2. 回族：开斋节、古尔邦节。

（1）开斋节：相当于年节。

（2）古尔邦节：又称宰牲节，宰杀一些牲口，如牛、羊，还要制作点心。

3. 蒙古族：举办那达慕大会，大家一起赛马、摔跤、射箭，大口吃肉、大口喝酒。

4. 傣族：泼水节，也叫浴佛节，互相泼水，泼的水越多，说明带来的好运越多。

5. 藏族：雪顿节，“雪”即酸奶，“顿”即宴会，合在一起即酸奶宴。雪顿节起源于藏传佛教格鲁派的规定，规定每年夏天禁止喇嘛外出，以免踩死虫子、蚂蚁，等到禁令解除后，喇嘛们纷纷下山，这时牧民就会敬献酸奶，于是形成了雪顿节。

6. 彝族：火把节。火把节期间，人们举着火把在田间地头游走，意味着烧死害虫，祈求庄稼的丰收，四川有全国最大的彝族聚集区，即凉山彝族自治州。

四、宗教概况

我国《宪法》规定："中华人民共和国公民有宗教信仰自由。"

"任何国家机关、社会团体和个人不得强制公民信仰宗教或者不信仰宗教，不得歧视信仰宗教的公民和不信仰宗教的公民。"同时也规定："任何人不得利用宗教进行破坏社会秩序、损害公民身体健康、妨碍国家教育制度的活动。""宗教团体和宗教事务不受外国势力的支配。"

我国宗教徒信奉的主要有佛教、道教、伊斯兰教、天主教和基督教。

【解析】宗教概况：我国《宪法》有明确规定，记忆允许信哪些宗教即可。我国宗教徒信奉的主要有佛教、道教、伊斯兰教、天主教和基督教，不能信全能神等。

【拓展】佛教

（1）诞生地：迦毗罗卫国

（2）创始人：释迦牟尼

（3）我国佛教四大名山：四川峨眉山、浙江普陀山、安徽九华山、山西五台山

【口诀】我佛普九五

【解析】佛教：在世界各大宗教中创立时间最早。

1. 创始人：悉达多·乔达摩，即释迦牟尼，出生于古印度迦毗罗卫国（今尼泊尔南部）。

2. 我国佛教四大名山：四川峨眉山、浙江普陀山、安徽九华山、山西五台山，记忆口诀"我佛普九五"，"我"对应四川峨眉山、"佛"即佛教四大名山、"普"

对应普陀山、“九”对应九华山、“五”对应五台山。

【拓展】道教

（1）诞生地：中国

（2）我国道教四大名山：湖北武当山、安徽齐云山、四川青城山、江西龙虎山

【口诀】武道骑青龙

【解析】道教：

1. 道教是我国本土宗教，是我国自己创立的。东汉末年，在蜀中鹤鸣山（今成都大邑县境内），张道陵倡导五米斗道，信奉者入教，要交五斗米，张道陵被尊称为“张天师”，尊为道教的创始人。

2. 我国道教四大名山：湖北武当山、安徽齐云山、四川青城山、江西龙虎山，记忆口诀“武道骑青龙”，“武”对应武当山、“道”即道教四大名山、“骑”对应齐云山、“青”对应青城山、“龙”对应龙虎山。

五、国家综合国力

国家实力通常用一国的综合国力来衡量。

国家实力既包含一国军事力量、经济力量和科技力量等在内的硬实力，也包含一国文化、价值观念、社会制度等文化软实力。

【解析】国家综合国力：国家实力既包含一国军事力量、经济力量和科技力量等在内的硬实力，也包含一国文化、价值观念、社会制度等文化软实力。如果要比软实力，我国非常强，有五千年的历史，软实力没有能比得过我国的，所以硬实力更重要一些。

【注意】我国人文概况：

1. 行政区划：

（1）34 个省级行政区，包含 23 个省、5 个自治区、4 个直辖市、2 个特别行政区。注意，台湾是我国 23 个省之一。

（2）自治区：内蒙古最早、西藏最晚。

（3）直辖市：北京、上海、天津、重庆，记忆“北上天重”。

2. 人口：

（1）2024 年末全国人口为 140828 万人，减少幅度收窄。

（2）分布：

①以黑河-腾冲为界，划分人口分界线，东南部人口稠密，西北部人口稀疏。

②人口分界线提出者：胡焕庸（因此也叫胡焕庸线）。

3. 民族：

（1）构成：汉族+55 个少数民族=56 个民族。人口最多的少数民族是壮族。

（2）分布：

①汉族（人口最多的民族）：遍布全国各地，集中在东部和中部。

②少数民族：主要分布在西南、西北和东北地区。

（3）特点：大散（杂）居、小聚居、交错杂居。

（4）节日：壮族—三月三歌节；回族—开斋节、古尔邦节；蒙古族—那达

慕；藏族—雪顿节；彝族—火把节；傣族—泼水节。

4.宗教概况：

（1）五大宗教：佛教、道教（本土）、伊斯兰教、天主教和基督教。

（2）佛教四大名山：四川峨眉山、浙江普陀山、安徽九华山、山西五台山。

（3）道教四大名山：湖北武当山、安徽齐云山、四川青城山、江西龙虎山。

5.综合国力：硬实力+软实力，其中硬实力更重要。

试题演练

1.（单选）关于我国的地理概况，下列说法正确的是（　）。

A.我国的气候具有夏季高温少雨、冬季低温多雨的特征

B.我国土地资源丰富，耕地比重很大

C.我国南方地区水量小，水位季节变化大

D.我国位于亚洲东部、太平洋西岸

【解析】1.A 项：我国是雨热同期，天气越热，降水越多，因此是夏季高温多雨；冬季是低温少雨。选项表述错误，排除。

B 项：我国耕地比重小，选项表述错误，排除。

C 项：北方降水少，雨季短，因此水位季节变化大，我国南方降雨多，雨季长，所以水位季节变化小，选项表述错误，排除。

D 项：我国位于亚洲东部、太平洋西岸，当选。【选 D】

2.（单选）下列选项中，关于我国国土概况的说法正确的是（　）。

A.我国位于北半球，北回归线穿过北部

B.我国陆地面积居世界第二位，仅次于俄罗斯

C.我国陆地地形多种多样，山区总面积约占陆地总面积的三分之二

D.我国四大盆地中，四川盆地是形态最典型、纬度最北、海拔最低的盆地

【解析】2.A 项：北回归线穿过南部，排除。B 项：我国陆地面积居世界第三位，仅次于俄罗斯和加拿大，排除。D 项："纬度最北"表述错误，应该是"纬度最南"，排除。【选 C】

3.（2021 四川省属·单选）下列关于我国疆域的说法，错误的是（　）。

A.最南端位于南沙群岛的曾母暗沙

B.最西端位于新疆维吾尔自治区乌恰县乌孜别里山口

C.最北端位于黑龙江省漠河市北端的松花江主航道中心线上

D.最东端位于黑龙江省抚远市黑龙江与乌苏里江交汇处的黑瞎子岛

【解析】3.选非题。C 项：最北端位于漠河北端的黑龙江主航道中心线上，当选。【选 C】

4.（2022 四川德阳·单选）我国地势西高东低，大致呈三级阶梯状分布。其中，地势的第一级阶梯是（　），平均海拔在 4000 米以上。

A.内蒙古高原　　B.黄土高原

C.青藏高原　　D.云贵高原

【解析】4.第一阶梯是青藏高原。【选 C】

5.（2022 四川甘孜·单选）我国四大高原中，石灰岩分布广、数量多，且属于典型的喀斯特地貌的是（　）。

A.青藏高原　　B.内蒙古高原

C.云贵高原　　D.黄土高原

【解析】5.喀斯特地貌位于云贵高原。【选 C】

6.（2022 四川巴中·单选）下列关于我国民族的叙述，不正确的是（　）。

A.我国各民族分布的特点是大杂居、小聚居，相互交错居住

B.壮族是我国人口最多的少数民族

C.我国少数民族主要分布在西北、西南、华北地区

D.我国共有 56 个民族，汉族人口最多

【解析】6.选非题。C 项：我国少数民族主要分布西北、西南、东北地区，没有华北。选项表述错误，当选。【选 C】

7.（2022 四川德阳·单选）在漫长的人类历史中，产生了成千上万种的宗

教。下列宗教发源于中国的是（　）。

A.佛教　　B.道教

C.犹太教　　D.清真教

【解析】7.C 项：在耶路撒冷，排除。D 项：在印度半岛，排除。A 项：古印度，排除。【选 B】

8.（2023 四川省属·单选）下列关于我国农业生产的常识，错误的是（　）。

A.我国盐碱地主要分布于西北等地区，可通过合理灌溉、增施有机肥、秸秆还田等，提高耕地产能

B.我国耕地主要分布在半湿润、湿润的平原、盆地和丘陵地区，北方以旱地为主，南方以水田为主

C.东北平原是我国最大的商品粮基地和林业基地，四川盆地是我国小麦、油菜等作物的主产区

D.推广大豆玉米带状复合种植，能有效解决大豆和玉米“争地”问题，提高土地利用率和作物产量

【解析】8.选非题。

C 项：四川盆地不是小麦，而是水稻。选项表述错误，当选。

A 项：盐碱地典型代表如荒漠内部岩土，再如青海、新疆地方等极端干旱的岩土，这些地方水盐运动比较多，可以通过灌溉、增加有机肥、秸秆还田等方式，提高耕地产能，相当于增加肥料，排除。

B 项：表述正确，降水越多越好，干旱的地方不好种地，排除。

D 项：由原来的单一作物，变成了复合种植，不仅可以收玉米，还可以收大豆，提高土地利用率和作物产量，排除。【选 C】

9.（2024 四川省属·单选）黄河是中华民族的母亲河。下列关于黄河流域的说法，错误的是（　）。

A.分布有西安、洛阳、开封等多个古代都城

B.黄淮海平原、汾渭平原、河套灌区是农产品主产区

C.煤炭、石油、天然气和有色金属资源丰富，煤炭储量占全国一半以上

D.拥有三江源、祁连山、小浪底等多个国家公园或国家重点生态功能区

【解析】9.选非题。

B 项：黄淮海平原（华北平原）、汾渭平原、河套灌区都在黄河流域，选项表述正确，排除。

C 项：北方煤炭特别多，煤炭储量占全国一半以上，内蒙、陕西、山西都是煤炭主产区。选项表述正确，排除。

D 项：小浪底位于河南洛阳，是黄河流域中的一个水库，不属于国家公园或国家重点生态功能区。选项表述错误，当选。【选 D】

10.（判断）当前，国际竞争的实质是以文化实力为基础的综合国力的较量。（　）

【解析】10.以硬实力为基础，只有经济、科技水平足够强大，才能接受你的文化，如很多人喜欢美国的文化，因为美国足够强，如果是阿富汗、两河流域等地，古文明非常强，但不喜欢他们的文化，因为他们比较弱，所以比硬实力。【选×】

遇见不一样的自己

Be your better self